康軒　數學　第 3 單元　答案

得分

國小數學 1 下單元卷　三、圖形與分類

一年____班____號　姓名：_____

1 兩個圖形的形狀大小都一樣的，在(　　)裡畫○，不一樣的打×。(每題 4 分，共 12 分)

(1) 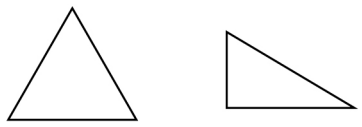 　(×)

(2) 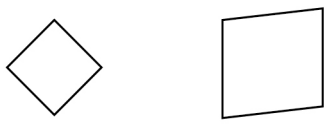 　(×)

(3) 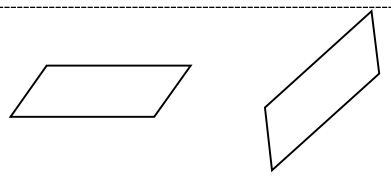 　(○)

2 左邊圖形移動了哪一片圖卡，才能變成右邊的圖形，用代號寫下來。(每題 7 分，共 14 分)

(1) 移動了(　ㄈ　)圖卡。

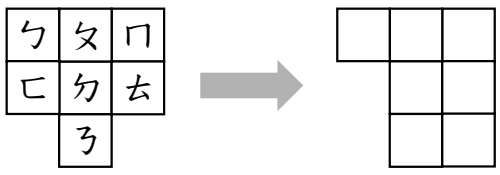

(2) 移動了(　ㄊ　)圖卡。

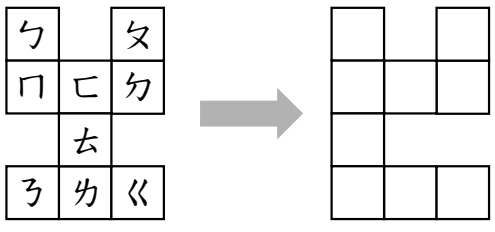

3 數一數，下面的圖形各是用幾個 ◺ 排成的？(每題 6 分，共 12 分)

(1) 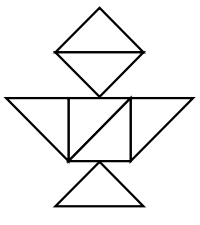 　(7)個 ◺

(2) 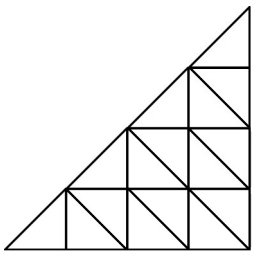 　(16)個 ◺

4 每種水果各有幾個？數數看，再回答問題。(每格 6 分，共 42 分)



(1) 各有幾個？

橘子		(6)個
草莓		(10)個
香蕉		(5)根
蘋果		(8)個

(2) 哪一種水果最多？(　草莓　)

(3) 哪一種水果最少？(　香蕉　)

(4) 蘋果比橘子多(　2　)個。

5 素養題。(每個答案 4 分，共 20 分)

下表是一年二班學生選舉模範生的票數統計表，填填看，並在正確的□裡畫○。

林于涵	王建丞	吳可銓
正正一	正下	正丌
(11)人	(8)人	(9)人

(1) 一年二班的模範生由誰當選？

○林于涵　□王建丞　□吳可銓

(2) 得到第二高票的是誰？

□林于涵　□王建丞　○吳可銓