得分

國小數學 1 下單元卷　四、18 以內的減法

一年____班____號　姓名：_____

1 看圖填算式。(每題 6 分，共 18 分)

(1) 還剩下幾個？

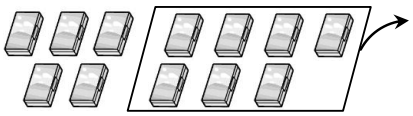

(　12　)－(　7　)＝(　5　)

答：剩下(　5　)個

(2) 比多幾隻？



(　13　)－(　5　)＝(　8　)

答：比多(　8　)隻

(3) 比少幾個？

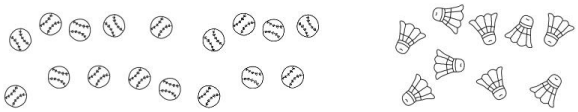

(　17　)－(　9　)＝(　8　)

答：比少(　8　)個

2 想一想，填填看。

(每格 3 分，共 18 分)

(1) 11－2＝9

11－3＝(　8　)

11－4＝(　7　)

11－5＝(　6　)

(2) 14－9＝5

15－9＝(　6　)

16－9＝(　7　)

17－9＝(　8　)

3 做做看。(每題 4 分，共 8 分)

(1) 把減數是 7 的心算卡圈起來。

12－7　13－6　15－7　16－9

(2) 把答案是 8 的心算卡圈起來。

15－6　16－8　17－9　18－9

4 寫出做法和答案。

(每題 12 分，共 48 分) (本題做法僅供參考)

(1) 姐姐有 16 枝鉛筆，妹妹比姐姐少 9 枝，妹妹有幾枝鉛筆？

算式：16－9＝7

答：妹妹有(　7　)枝鉛筆

(2) 農場裡養了 7 隻牛，羊比牛多 5 隻，農場裡養了幾隻羊？

算式：7＋5＝12

答：(　12　)隻羊

(3) 豆漿店的老闆煮了 16 杯豆漿，賣出 7 杯後，還剩下幾杯豆漿？

算式：16－7＝9

答：剩下(　9　)杯豆漿

(4) 圖書館熱門書刊有 14 本，有 8 本被借走了，沒被借走的有幾本？

算式：14－8＝6

答：(　6　)本沒被借走

5 素養題。(8 分)

爸爸開車載全家人去宜蘭的觀光工廠，觀光工廠的停車場可以停 15 輛車，爸爸抵達時，剩下 6 個車位，停車場已經停了幾輛車？

算式：15－6＝9

答：(　9　)輛車