康軒　數學　第 7 單元　答案

國小數學 1 下單元卷　七、認識錢幣

得分

一年____班____號　姓名：_____
(本題圈法僅供參考)

1 看圖回答問題。(每個答案 2 分，共 20 分)

翊芬

我的撲滿裡有
50 10 10 10 10
1 1 1 1 1 1

奇翰

我的撲滿裡有
50 5 5 5 5 5 5
1 1 1 1 1 1 1 1 1 1

(1) 翊芬有(　1　)個50、(　4　)個10和(　6　)個1，合起來是(　96　)元。

(2) 奇翰有(　1　)個50、(　6　)個5和(　10　)個1，合起來是(　90　)元。

(3) 誰的錢比較多？多幾元？
(　翊芬，奇翰　)的錢比較多，多(　6　)元

2 填填看。(每格 4 分，共 44 分)

(1) 淑娟想買一個 30 元。
① 用10來付，要付(　3　)個。
② 用5來付，要付(　6　)個。
③ 用1來付，要付(　30　)個。

(2) 媽媽想買一顆 100 元。
① 用 100 來付，要付(　1　)張。
② 用50來付，要付(　2　)個。
③ 用10來付，要付(　10　)個。

(3) 右圖是詠昕存的錢，他一共存了(　88　)元。

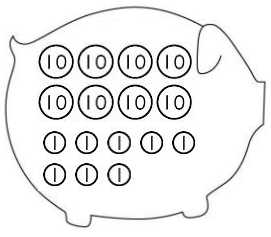

(4) 小印有10 5 5 5 5 1 1 1 1 1，他可以買下面這些東西嗎？可以買的在(　)裡畫○，不能買的打×。

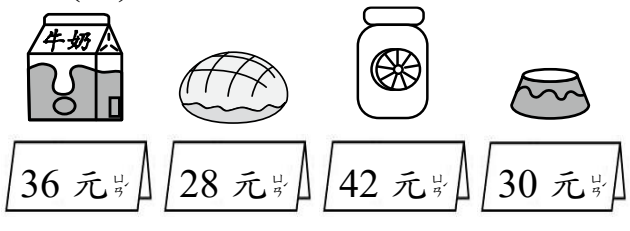

(　×　)　(　○　)　(　×　)　(　○　)

3 圈一圈，做做看。(每題 13 分，共 26 分)

(1) 佳音有 5 個10，想買一個 35 元，最少要拿出幾個10才夠？

10 10 10 10 10

答：最少要拿出(　4　)個10才夠

(2) 燕宜買一個 58 元，怎麼付錢才會剛好？

10 10 10 10 10 10 10 10 10 10
5 5 5 5 1 1 1 1 1 1 1 1 1 1
5 5 5 5 1 1 1 1 1 1 1 1 1 1
1 1 1 1 1 1 1 1 1 1
5 5 5 5 1 1 1 1 1 1 1 1 1 1

4 素養題。(每題 5 分，共 10 分)

宥詰有 1 個50、3 個10和 8 個1，哥哥有 7 個10和 2 個1。



(1) 宥詰想買一個，最少要怎麼付錢？畫畫看。

50 10

(2) 哥哥買了一個後，還剩下多少元？畫畫看。

10 10 10 ~~10~~ ~~10~~ ~~10~~ ~~10~~
~~1~~ ~~1~~

(本題畫法僅供參考)