康軒　數學　第 8 單元　答案

國小數學 1 下單元卷　八、二位數的加減

得分

一年____班____號　姓名：_____

1 填填看。(每格 5 分，共 20 分)

(1) 有 6 個小朋友和 27 顆足球，一個小朋友拿 1 顆足球，會剩下(　21　)顆足球。

(2) 佳穎有 8 元，媽媽再給她 27 元，佳穎現在有(　35　)元。

(3)

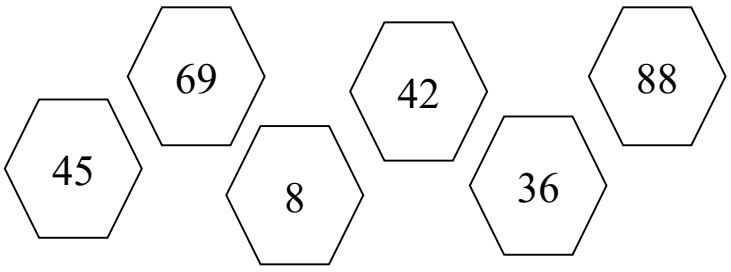

① 最大的數和最小的數加起來是(　96　)。

② 最大的數比最小的數多(　80　)。

2 算算看。(每題 6 分，共 36 分)

(1) 35＋9＝(　44　)	(2) 76－40＝(　36　)
(3) 34＋15＝(　49　)	(4) 85－7＝(　78　)
(5) 27＋3＝(　30　)	(6) 90－9＝(　81　)

3 看圖做做看。(每題 11 分，共 33 分)

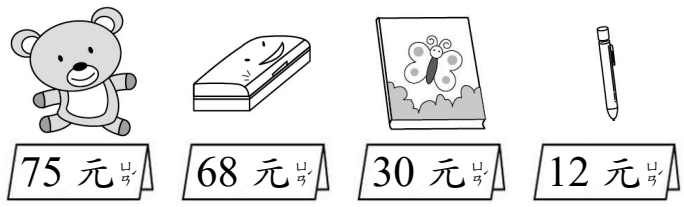

(1) 育昇想買一隻 和一枝 ，一共要付多少元？

算式：75＋12＝87

答：要付(　87　)元

(2) 迪倫身上有 20 元，想買一本  ，不夠多少元？

算式：30－20＝10

答：不夠(　10　)元

(3) 一個 比一本  多幾元？

算式：68－30＝38

答：多(　38　)元

4 素養題。(11 分)

眼科診所今天共有 27 個人掛號看診，醫師已經看診完 9 個人，還要再看診幾個人才能全部看完？

算式：27－9＝18

答：還要再看診(　18　)個人