# 康軒校用 數學 第03回 答案

1下 第3回

## 三、圖形與分類

一年____班____號

姓名_____

得分

① 把移動的那一塊圖形板塗上顏色。(左邊和右邊都要塗呵！)(每題5分，共20分)

(1)

(2)

(3)

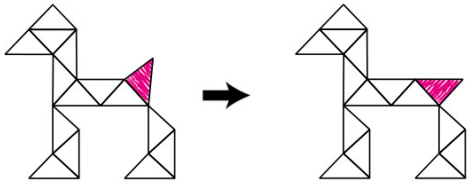

(4)

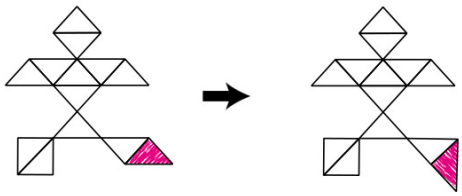

② 下面是一年六班票選最喜愛動物的票數紀錄表，每個小朋友都有1票，看表填填看。(每題5分，共20分)

| ①號 小狗 | ②號 貓咪 | ③號 綿羊 | ④號 大象 |
|---|---|---|---|
| 正 | 正下 | 丌 | 正一 |

(1)得票數最多的是(　②　)號。

(2)得票數最少的是(　③　)號。

(3)得票數最多的動物比最少的多(　4　)票。

(4)大象比小狗多(　1　)票。

③ 數一數，下面圖形是用幾塊排成的？(每題5分，共20分)

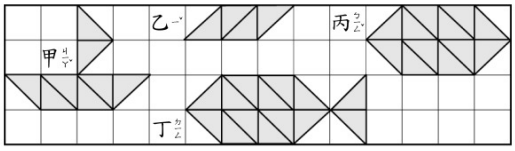


(1)甲：(　8　)塊

(2)乙：(　4　)塊

(3)丙：(　12　)塊

(4)丁：(　14　)塊

④ 數一數，填填看。(每格5分，共20分)

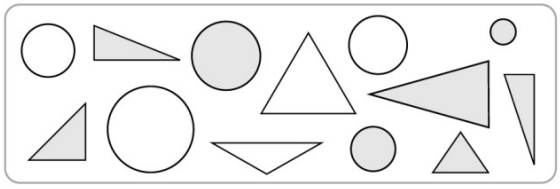

(1)三角形有(　7　)個，

圓形有(　6　)個。

(2)灰色的圖形有(　8　)個，

白色的圖形有(　5　)個。

⑤ 這些圖形是從哪裡剪下來的？連連看。

(每條連線5分，共20分)

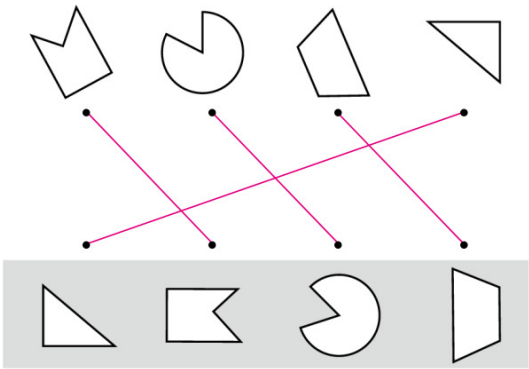

有著作權・翻印必究