# 康軒校用 數學 第07回 答案

1下 第7回

## 六、100以內的數②

一年____班____號

姓名_____

得分

① 想一想，填填看。

(每格2分，共16分)

(1)寫出4個十位數字是7，且比75小的數。

(74)、(73)、(72)、(71)

(2)寫出4個比86大，比95小的數。

(87)、(88)、(89)、(90)

② 數一數，在定位板上寫上數量。(每題5分，共10分)

(1)



| 十位 | 個位 |
|---|---|
| 8 | 2 |

(2)

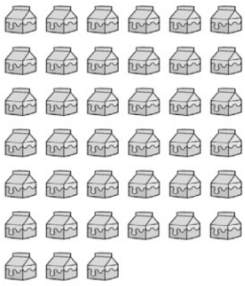

| 十位 | 個位 |
|---|---|
| 6 | 3 |

③ 下面是百數表的一部分，想一想，填填看。

(每個答案2分，共20分)

| | | | | | | |
|---|---|---|---|---|---|---|
| | 15 | 16 | | 18 | 19 | |
| 24 | 25 | 26 | 27 | 28 | 29 | 30 |
| 34 | 35 | 36 | 37 | 38 | 39 | 40 |
| | 45 | 46 | | 48 | 49 | |

④ 按照順序填填看。

(每格2分，共24分)

(1) 58 — 59 — 60 — 61 — 62 — 63

(2) 93 — 92 — 91 — 90 — 89 — 88

(3) 43 — 53 — 63 — 73 — 83 — 93

(4) 100 — 90 — 80 — 70 — 60 — 50

⑤ 填填看。(每格3分，共18分)

(1)74的十位數字是(　7　)，個位數字是(　4　)。

(2)個位數字是7，十位數字是6的數是(　67　)。

(3)7個十和12個一合起來是(　82　)。

(4)10顆雞蛋裝一盒。86顆雞蛋最多可以裝成(　8　)盒，還剩下(　6　)顆雞蛋。

⑥ 一個表示1，一條表示10，下面的數要用多少表示？圈圈看。

(每題6分，共12分)

(1)85

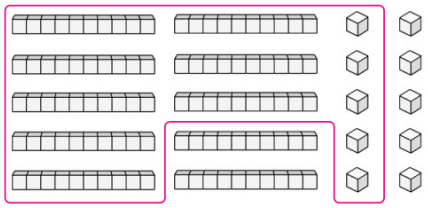

(2)59

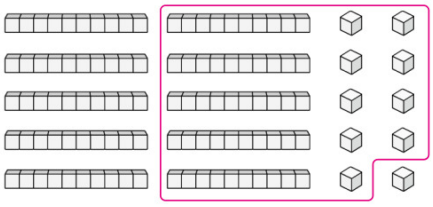



有著作權・翻印必究