康軒校用 數學 第08回 答案

1下 第8回

七、認識錢幣

一年____班____號

姓名_____

得分

① 數一數，一共有多少元？在錢數比較多的□裡畫○。

(每個答案4分，共24分)

(1)

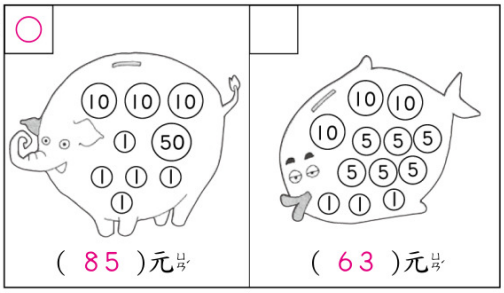

(85)元　　(63)元

(2)

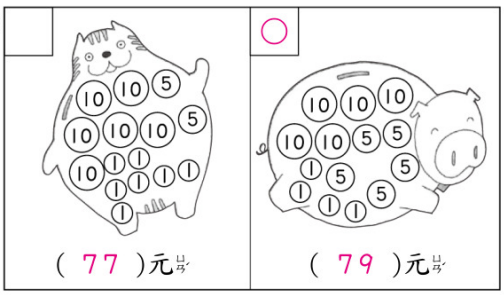

(77)元　　(79)元

② 孟霖買了一個 50元，想一想，填填看。(每題5分，共20分)

(1)用(50)來付，要付(1)個。

(2)用(10)來付，要付(5)個。

(3)用(5)來付，要付(10)個。

(4)用(1)來付，要付(50)個。

③ 怎樣付錢才會剛好？圈圈看。(每題8分，共16分)

(1)

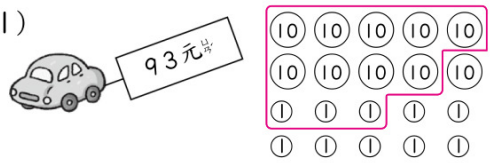

(2)

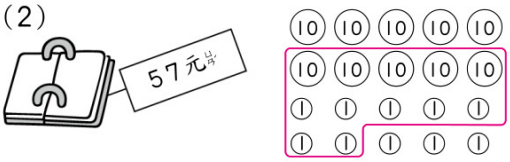

④ 把一樣多的錢連起來。

(每條連線5分，共20分)

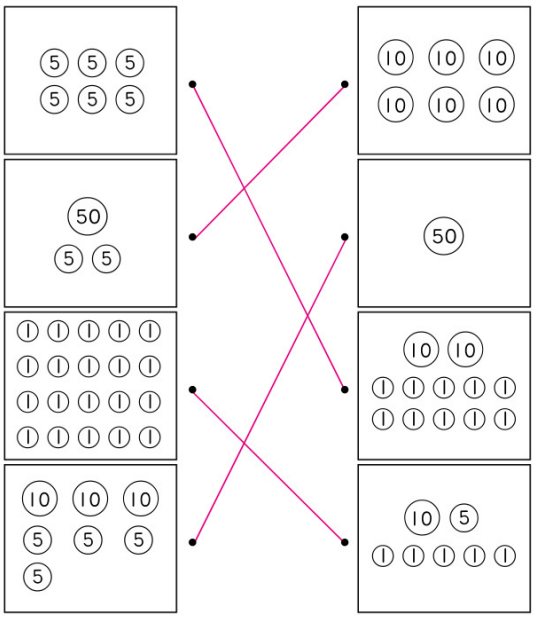

⑤ 回答問題。(每題6分，共12分)

(1)子瑜有7個(10)，想買一瓶43元的汽水，最少要拿出幾個(10)才夠？

最少要拿出(5)個(10)

(2)智奇有9個(10)，想買一張67元的遊戲卡，最少要拿出幾個(10)才夠？

最少要拿出(7)個(10)

⑥ 用(10)和(1)畫畫看。(8分)

72元

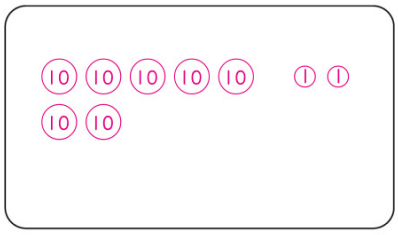

有著作權・翻印必究