康軒校用 數學 第16回 答案

1下 第14回

第一次成績考查(配合三次段考)
(範圍：第一單元～第三單元)

一年____班____號
姓名_____

得分

① 哪一個數比較大？在□裡畫○。(每題2分，共4分)

(1) 48 ○　39 □

(2) 46 □　47 ○

② 想一想，哪一塊圖形板被移動位置？用代號填填看。(每題3分，共6分)

(1)

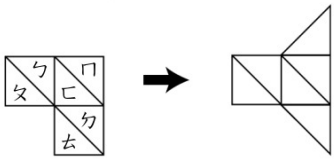

被移動的圖形板是(　ㄊ　)。

(2)

被移動的圖形板是(　ㄉ　)。

③ 看圖做做看。(每個答案2分，共12分)



(1) 排在第(　45　)個。排在它前面一個的水果，是排在第(　44　)個；排在它後面一個的水果，是排在第(　46　)個。

(2) 排在第47個的水果是(　　，　　，　　)；把排在它後面的第3個水果圈起來，圈起來的水果是排在第(　50　)個。

④ 算算看。(每題2分，共12分)

(1) 7＋10＝(　17　)	(2) 6＋5＝(　11　)
(3) 8＋6＝(　14　)	(4) 9＋9＝(　18　)
(5) 4＋7＝(　11　)	(6) 5＋8＝(　13　)

⑤ 按照順序填填看。(每格1分，共10分)

(1) 38 — 40 — 42 — 44 — 46 — 48

(2) 15 — 20 — 25 — 30 — 35 — 40

(3) 10 — 20 — 30 — 40 — 50

(4) 46 — 36 — 26 — 16 — 6

⑥ 數一數，填填看。(每格1分，共6分)

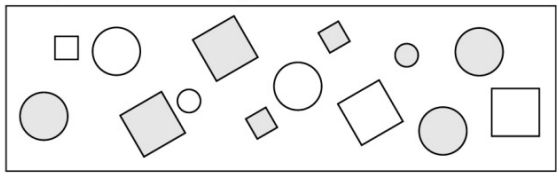

(1) 大的圖形有(　9　)個；小的圖形有(　5　)個。

(2) 圓形有(　7　)個；正方形有(　7　)個。

(3) 灰色的圖形有(　8　)個；白色的圖形有(　6　)個。

有著作權・翻印必究