第15回

第二次成績考查(配合三次段考)

(範圍：第四單元～第六單元)

一年____班____號

姓名_____

得分

① 看圖填填看。(每格1分，共12分)

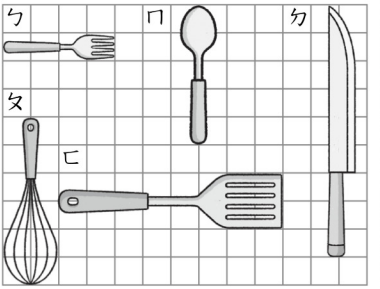

(1)每一種物品的長度分別和幾個□一樣長？

ㄅ：(4)個□　　ㄆ：(6)個□

ㄇ：(5)個□　　ㄈ：(8)個□

ㄉ：(9)個□

(2)從長到短排出來：

(ㄉ)→(ㄈ)→(ㄆ)→(ㄇ)→(ㄅ)

(3)ㄅ比ㄉ少(5)個□。

(4)ㄇ和ㄈ合起來會和(13)個□一樣長。

② 想一想，填填看。

(每格1分，共8分)

(1) 14－8＝(6)
14－7＝(7)
14－6＝(8)
14－5＝(9)

(2) 10－4＝(6)
11－4＝(7)
12－4＝(8)
13－4＝(9)

③ 按照順序從大到小排排看。

(每格1分，共6分)

(1) 77、59、80

80 － 77 － 59

(2) 93、68、75

93 － 75 － 68

④ 一個表示1，一條表示10，數一數，填填看。

(每格1分，共6分)

(1)

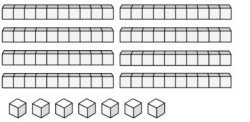

有(8)個十和(7)個一，合起來是(87)。

(2)

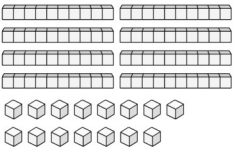

上面積木表示的數是(95)，它的十位數字是(9)，個位數字是(5)。

⑤ 算算看。(每題2分，共12分)

(1) 16－7＝(9)
(2) 11－3＝(8)
(3) 15－6＝(9)
(4) 13－9＝(4)
(5) 12－8＝(4)
(6) 14－9＝(5)

有著作權・翻印必究