_____國小　_____學年度

評量卷　數學領域　一下　範圍：1、20 以內的加法

一　年　_____班　_____號　姓名：_____　得分：_____

一　看圖算算看，合起來有幾個糖果？（每格 3 分，共 27 分）

1.



（ 10 ）＋（ 4 ）＝（ 14 ）

2.

（ 5 ）＋（ 10 ）＝（ 15 ）

3.



（ 6 ）＋（ 8 ）＝（ 14 ）

二　把答案相同的連起來。（每條線 3 分，共 15 分）

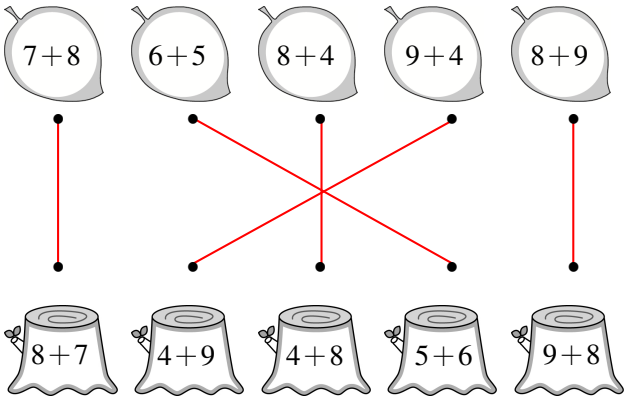

三　加加看。（每題 3 分，共 18 分）

1. 5＋6＝（ 11 ）
2. 6＋6＝（ 12 ）
3. 9＋7＝（ 16 ）
4. 5＋9＝（ 14 ）
5. 7＋4＝（ 11 ）
6. 5＋8＝（ 13 ）

四　圈出正確的答案。（每個 2 分，共 20 分）

1. 答案是 13 的算式。

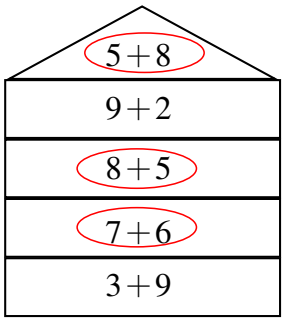

2. 答案是 15 的算式。



五　先想想看，再填填看。（每格 1 分，共 5 分）

1.
5＋9＝14
6＋9＝15
7＋9＝16
8＋9＝（ 17 ）
9＋9＝（ 18 ）

2.
7＋4＝11
7＋5＝12
7＋6＝（ 13 ）
7＋7＝（ 14 ）
7＋8＝（ 15 ）

六　把做法用算式記下來。（每題 5 分，共 15 分）

1. 蘇文寫書法，上午寫了 8 張練習紙，下午寫了 6 張，蘇文上午和下午共寫幾張練習紙？

算式：8＋6＝14

共寫（ 14 ）張

2. 美怡吃了 6 顆葡萄，弟弟吃了 7 顆葡萄，兩個人共吃了幾顆葡萄？

算式：6＋7＝13

共吃了（ 13 ）顆葡萄

3. 育軒的書櫃上有 9 個模型玩具，媽媽又給他 2 個，現在書櫃上共有幾個模型玩具？

算式：9＋2＝11

共有（ 11 ）個模型玩具