翰林A　數學　第2單元　答案

＿＿＿＿國小　＿＿＿＿學年度

評量卷　數學領域　一下　範圍：2、長度

一　年　＿＿＿＿班　＿＿＿＿號　姓名：＿＿＿＿＿＿　得分：＿＿＿＿＿＿

一　填填看，這些物品有多長？

（每格4分，共16分）

1.

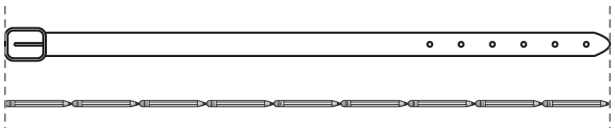

皮帶和（ 9 ）枝一樣長。

2.

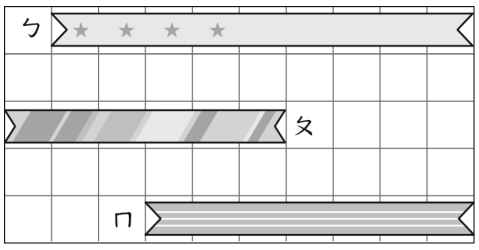

ㄅ緞帶和（ 9 ）個格子一樣長。

ㄆ緞帶和（ 6 ）個格子一樣長。

ㄇ緞帶和（ 7 ）個格子一樣長。

二　哪一個比較長？打∨。

（每題5分，共10分）

1. 哪一個瓶子比較長？

ㄅ

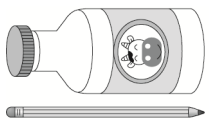

（　　）

ㄆ

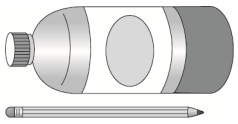

（ ∨ ）

2. 哪一條串珠最長？

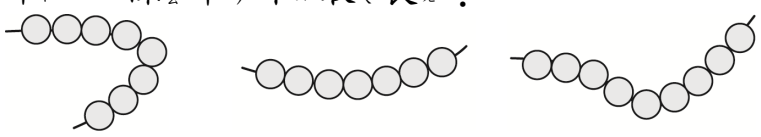

（　　）　（　　）　（ ∨ ）

三　看圖回答問題。（每題3分，共12分）

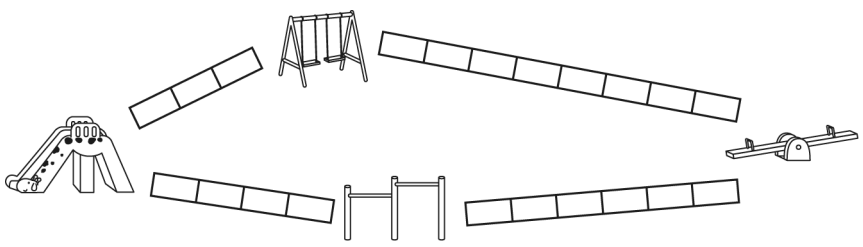

1. 從直接走到，要走（ 4 ）個□。

2. 從直接走到，要走（ 6 ）個□。

3. 從經過走到，共要走（ 14 ）個□。

4. 從經過走到，共要走（ 7 ）個□。

四　數數看，小朋友走到蘋果樹的路是幾個□長？

（每格4分，共12分）

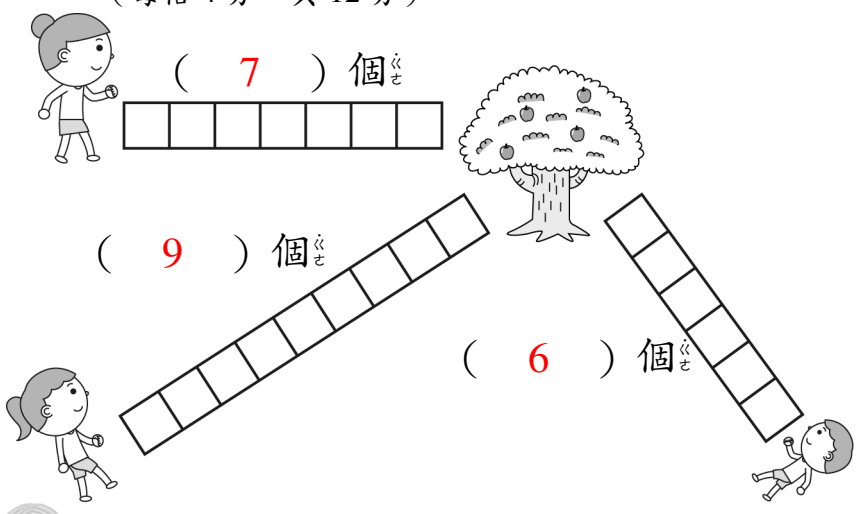

五　看圖填填看、圈圈看。

（每題6分，共30分）

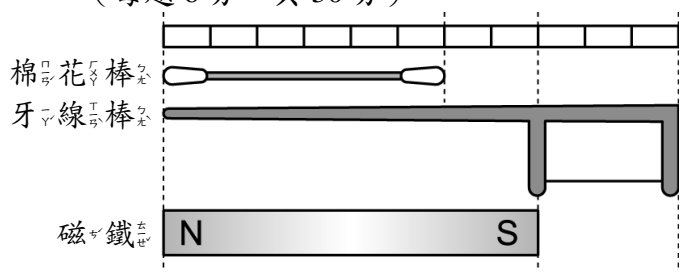

1. 棉花棒和（ 6 ）個□一樣長。

2. 牙線棒和（ 11 ）個□一樣長。

3. 磁鐵和（ 8 ）個□一樣長。

4. （ 棉花棒 、 牙線棒 、 磁鐵 ）最長。

5. （ 棉花棒 、 牙線棒 、 磁鐵 ）最短。

六　算算看，有多長？

（每題10分，共20分）

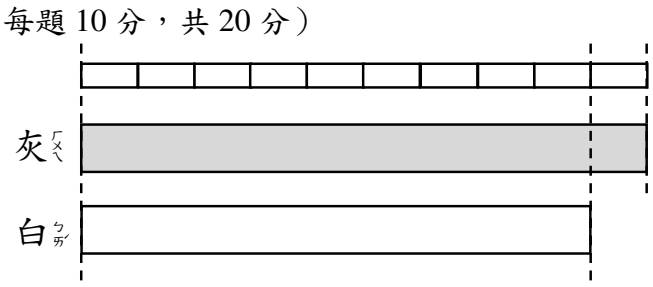

1. 灰緞帶和白緞帶合起來和幾個□一樣長？

算式：10＋9＝19

（ 19 ）個

2. 把白緞帶剪下3個□的長度，剩下的白色緞帶和幾個□一樣長？

算式：9－3＝6

（ 6 ）個