_____國小　_____學年度

評量卷　數學領域　一下　範圍：3、20 以內的減法

一　年　_____班　_____號　姓名：_____　得分：_____

## 一　看圖做做看，再填答案。

（每題 4 分，共 8 分）

1. 

15－6＝（　9　）

2. 

11－6＝（　5　）

## 二　算算看。（每題 4 分，共 16 分）

1. 13－4＝（　9　）　2. 12－5＝（　7　）

3. 16－7＝（　9　）　4. 11－9＝（　2　）

## 三　把答案相同的連起來。

（每條線 4 分，共 20 分）

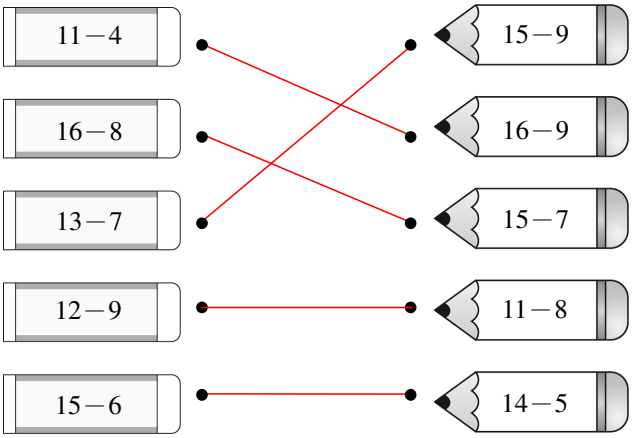


## 四　先想想看，再做做看。

（每個答案 4 分，共 24 分）

1. 11－8＝3

12－8＝（　4　）

13－8＝（　5　）

▲這些算式的哪一個數相同？圈圈看。

被減數

減數

差

2. 14－5＝9

14－6＝（　8　）

14－7＝（　7　）

▲這些算式的哪一個數相同？圈圈看。

被減數

減數

差

## 五　把答案是 4 的算式圈起來。

（每個 2 分，共 8 分）

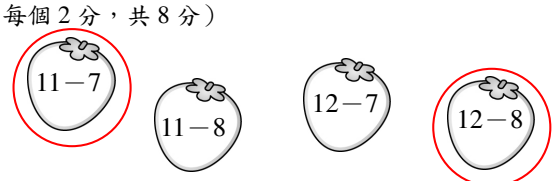


## 六　畫○算算看，並把算式記下來。

（每題 6 分，共 12 分）

1. 桌上有 12 瓶果汁和 9 瓶豆漿，果汁比豆漿多幾瓶？

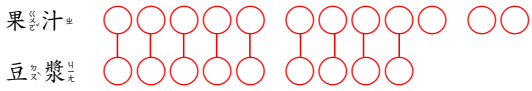


算式：12－9＝3

多（　3　）瓶

2. 櫃子裡有 13 頂安全帽，7 個小朋友每個人戴 1 頂，還剩下幾頂安全帽？

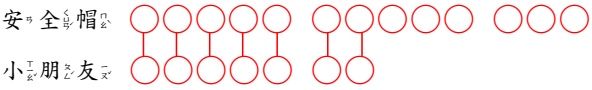


算式：13－7＝6

還剩下（　6　）頂安全帽

## 七　寫出算式和答案。

（每題 6 分，共 12 分）

1. 老師買了 14 枝紅筆，用完 6 枝，還有幾枝紅筆？

算式：14－6＝8

還有（　8　）枝紅筆

2. 奇奇有 16 顆彈珠，雲安有 9 顆彈珠，奇奇比雲安多幾顆彈珠？

算式：16－9＝7

多（　7　）顆彈珠