翰林A 數學 第4單元 答案

_____國小　_____學年度

評量卷　數學領域　一下　範圍：4、100 以內的數

一　年　_____班　_____號　姓名：_____　得分：_____

一　數數看，有多少顆棒球？

（每題 2 分，共 8 分）

1.

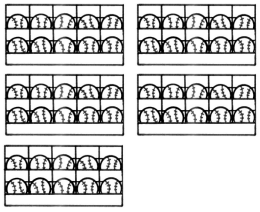

（ 50 ）顆

2.

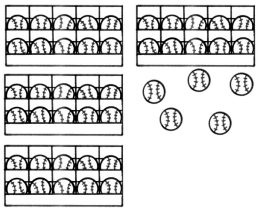

（ 45 ）顆

3.

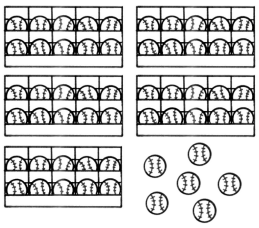

（ 56 ）顆

4.

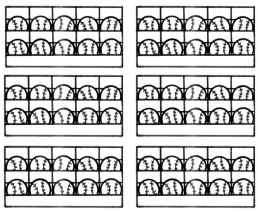

（ 60 ）顆

二　按照數的順序填填看。

（每格 2 分，共 32 分）

1. 88 — 89 — 90 — 91 — 92 — 93
2. 70 — 60 — 50 — 40 — 30 — 20
3. 34 — 44 — 54 — 64 — 74 — 84
4. 40 — 45 — 50 — 55 — 60 — 65
5. 64 — 66 — 68 — 70 — 72 — 74

三　填填看。（每格 2 分，共 26 分）

1. 58 的十位數字是（ 5 ），表示有（ 5 ）個十；個位數字是（ 8 ），表示有（ 8 ）個一，記在位值表上。

十位	個位
5	8

2. 40 可以分成（ 4 ）個十和 0 個一，記在位值表上。

十位	個位
4	0

3. 6 個十和 19 個一，合起來與 7 個十和（ 9 ）個一一樣多，是（ 79 ），記在位值表上。

十位	個位
7	9

四　把比較大的數圈起來。

（每題 2 分，共 8 分）

1. 68　63
2. 38　83
3. 51　49
4. 97　89

五　全部的積木和多少個 一樣多？記記看。（每格 2 分，共 10 分）

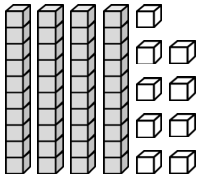

十位	個位
4	9

（ 4 ）個十和（ 9 ）個一，合起來是（ 49 ）。

六　10 個巧克力裝一盒，填填看。

（每格 1 分，共 4 分）

1. 96 個巧克力，可以裝滿 9 盒，還剩下（ 6 ）顆。
2. 96 可以分成（ 9 ）個十和 6 個一。
3. 把 96 記在位值表上。

十位	個位
9	6

七　將百數表中的空白的部分填上數字。（每格 1 分，共 12 分）

1	2	3	4	5	6	7	8	9	10
11	12					17	18	19	20
21	22	23	24	25	26				
			34	35	36	37	38	39	
41	42	43	44	45	46	47	48	49	
51	52	53	54	55	56	57	58	59	
	62	63	64	65	66	67	68	69	
	72	73	74	75	76	77	78	79	
		83				87	88	89	
91	92	93	94	95	96	97	98	99	100