翰林A　數學　第6單元　答案

＿＿＿＿國小　＿＿＿＿學年度

評量卷　數學領域　一下　範圍：6、數數看有多少元

一　年　＿＿＿班　＿＿＿號　姓名：＿＿＿＿＿＿　得分：＿＿＿＿＿

一　做做看。（每題5分，共15分）

1. 1張 可以換（ 10 ）個 。
2. 1個 可以換（ 10 ）個 。
3. 1個 可以換（ 50 ）個 。

二　數數看，有多少元？（每題4分，共16分）

1.

（ 12 ）元

2.

（ 70 ）元

3.

（ 47 ）元

4.

（ 35 ）元

三　數數看，有幾元？誰的錢最多？在□裡打✓。（每格4分，共24分）

香雅

（ 85 ）元　□

文芳

（ 100 ）元　✓

翔翔

（ 88 ）元　□

四　用⑩表示 ，用①表示 ，畫畫看，要怎麼付錢才會剛好？（每題5分，共10分）（畫法僅供參考）

1.



76元

⑩⑩⑩⑩
⑩⑩⑩
①①①①①
①

2.



54元

⑩⑩⑩⑩
⑩
①①①①

五　小玉和洋洋都想買一個69元的玩具，他們的錢夠不夠買？（每題5分，共10分）

1. 小玉的錢

（ 夠，不夠 ）

2. 洋洋的錢



（ 夠，不夠 ）

六　素貞想買一個西瓜，但她的錢不夠，還要補多少元才會剛好？用①畫出來。（6分）

48元

素貞的錢

①①①

還要補（ 3 ）元

七　一包 賣79元，要怎麼付錢才會剛好？圈圈看。（4分）（圈法僅供參考）

八　看圖填填看。（每題5分，共15分）

蛋糕 49元

麵包 18元

咖啡 35元

1. 買一杯咖啡，要付（ 3 ）個 和1個 才會剛好。
2. 買一個麵包，要付1個 和（ 8 ）個 才會剛好。
3. 小丁有4個 ，他的錢不夠買哪一種點心？圈圈看。

（ 蛋糕、麵包、咖啡 ）