翰林A　數學　第8單元　答案

＿＿＿＿國小　＿＿＿＿學年度

評量卷　數學領域　一下　範圍：8、兩位數的加減法

一　年　＿＿＿班　＿＿＿號　姓名：＿＿＿＿＿＿　得分：＿＿＿＿＿＿

一　看圖算算看。（每題6分，共18分）

1.

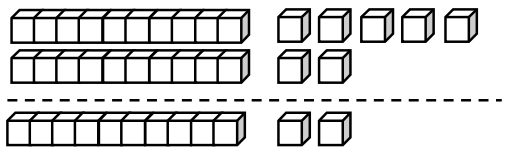

27＋12＝（　39　）

2.

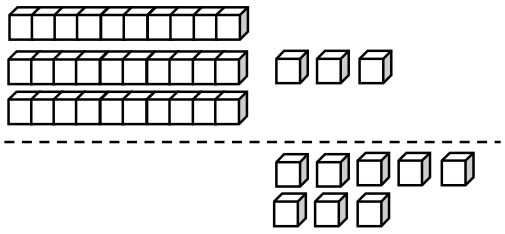

33＋8＝（　41　）

3.

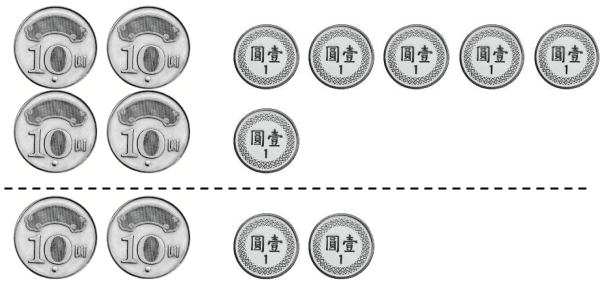

46＋22＝（　68　）

二　畫⑩和①算算看。

（每題6分，共24分）（畫法僅供參考）

1. 46－2＝（　44　）

⑩⑩⑩⑩
①①①①~~①~~~~①~~

2. 25－5＝（　20　）

⑩⑩
~~①~~~~①~~~~①~~~~①~~~~①~~

3. 79－28＝（　51　）

⑩⑩⑩⑩⑩~~⑩~~~~⑩~~
①~~①~~~~①~~~~①~~~~①~~
~~①~~~~①~~~~①~~~~①~~

4. 70－30＝（　40　）

⑩⑩⑩⑩~~⑩~~~~⑩~~~~⑩~~

三　寫出算式做做看。

（每題8分，共16分）

1. 一包雲彩紙特價43元，文婷買了2包，共要付多少元？

算式：43＋43＝86

要付（　86　）元

2. 學校有67把愛心傘，借給小朋友47把後，學校還有幾把愛心傘？

算式：67－47＝20

還有（　20　）把愛心傘

四　先畫⑩和①，再用算式記下來。

（每題6分，共24分）（畫法僅供參考）

1. 圖書館裡原有54個人，又進來9個人，圖書館裡現在有幾個人？

⑩⑩⑩⑩⑩　①①①①①①①①①①①①①①

算式：54＋9＝63

有（　63　）個人

2. 姐姐有7個10元錢幣，買一枝9元的冰棒，還剩下幾元？

⑩⑩⑩⑩⑩⑩~~⑩~~ → ①~~①~~~~①~~~~①~~~~①~~~~①~~~~①~~~~①~~~~①~~

算式：70－9＝61

還剩下（　61　）元

3. 一瓶優酪乳24元，媽媽買了2瓶優酪乳，要付多少元？

⑩⑩　①①①①
⑩⑩　①①①①

算式：24＋24＝48

要付（　48　）元

4. 倉庫裡有45張桌子和31張椅子，桌子比椅子多幾張？

⑩~~⑩~~~~⑩~~~~⑩~~　①①①①~~①~~

算式：45－31＝14

多（　14　）張

五　加一加，減一減。（每題9分，共18分）

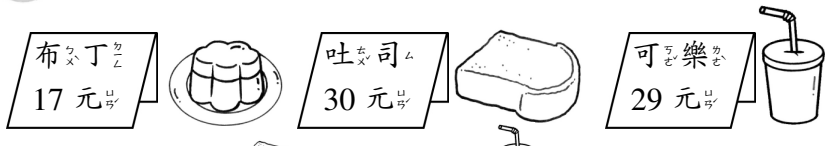

1. 買一塊和一杯，要付多少元？

算式：30＋29＝59

要付（　59　）元

2. 一杯比一個多多少元？

算式：29－17＝12

多（　12　）元