翰林A 數學 第8單元 答案

_____國小 _____學年度

評量卷　數學領域　一下　範圍：8、兩位數的加減法

一　年 _____班 _____號　姓名：_____　得分：_____

一　看圖算算看。（每題 6 分，共 18 分）

1.

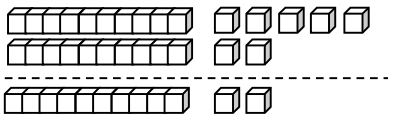

27＋12＝（ 39 ）

2.

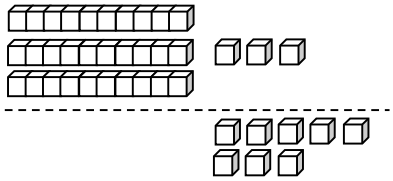

33＋8＝（ 41 ）

3.

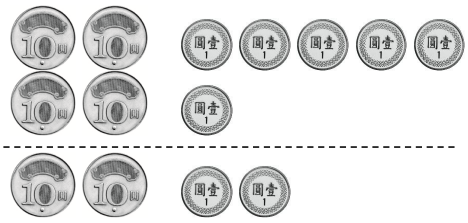

46＋22＝（ 68 ）

二　畫⑩和①算算看。

（每題 6 分，共 24 分）（畫法僅供參考）

1. 46－2＝（ 44 ）

⑩⑩⑩⑩

①①①①⊘⊘

2. 25－5＝（ 20 ）

⑩⑩

⊘⊘⊘⊘⊘

3. 79－28＝（ 51 ）

⑩⑩⑩⑩⑩⊘⊘

①⊘⊘⊘⊘

⊘⊘⊘⊘

4. 70－30＝（ 40 ）

⑩⑩⑩⑩⊘⊘⊘

三　寫出算式做做看。

（每題 8 分，共 16 分）

1. 一包雲彩紙特價 43 元，文婷買了 2 包，共要付多少元？

算式：43＋43＝86

要付（ 86 ）元

2. 學校有 67 把愛心傘，借給小朋友 47 把後，學校還有幾把愛心傘？

算式：67－47＝20

還有（ 20 ）把愛心傘

四　先畫⑩和①，再用算式記下來。

（每題 6 分，共 24 分）（畫法僅供參考）

1. 圖書館裡原有 54 個人，又進來 9 個人，圖書館裡現在有幾個人？

⑩⑩⑩⑩⑩　①①①①①①①①①①①①

算式：54＋9＝63

有（ 63 ）個人

2. 姐姐有 7 個 10 元錢幣，買一枝 9 元的冰棒，還剩下幾元？

⑩⑩⑩⑩⑩⑩⊘ → ①⊘⊘⊘⊘⊘⊘⊘⊘⊘

算式：70－9＝61

還剩下（ 61 ）元

3. 一瓶優酪乳 24 元，媽媽買了 2 瓶優酪乳，要付多少元？

⑩⑩　①①①①

⑩⑩　①①①①

算式：24＋24＝48

要付（ 48 ）元

4. 倉庫裡有 45 張桌子和 31 張椅子，桌子比椅子多幾張？

⑩⊘⊘⊘　①①①①⊘

算式：45－31＝14

多（ 14 ）張

五　加一加，減一減。（每題 9 分，共 18 分）

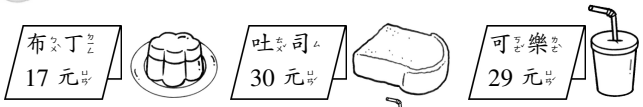

1. 買一塊和一杯，要付多少元？

算式：30＋29＝59

要付（ 59 ）元

2. 一杯比一個多多少元？

算式：29－17＝12

多（ 12 ）元