翰林B　數學　第1單元　答案　（1／2）

＿＿＿＿國小　＿＿＿＿學年度

評量卷　數學領域　一下　範圍：1、20 以內的加法

一　年　＿＿＿班　＿＿＿號　姓名：＿＿＿＿＿＿　得分：＿＿＿＿＿＿

一　選出正確的答案。（每題 1 分，共 5 分）

1. （ ② ）「哥哥有 7 個花片，弟弟有 5 個花片，兩個人共有幾個花片？」，下面哪一個是正確的算式和答案？　① 7－5＝2 ② 7＋5＝12 ③ 7＋4＝11。

2. （ ③ ）下面算式中，哪一個的答案和其他算式的答案不同？　① 8＋6 ② 9＋5 ③ 5＋8 。

3. （ ① ）9＋3＝12 的算式中，被加數、加數分別是多少？
① 被加數是 9，加數是 3
② 被加數是 9，加數是 12
③ 被加數是 3，加數是 12。

4. （ ① ）小明到夜市玩棒球九宮格的遊戲，第一球投中 4 分，第二球投中 9 分，小明一共投中幾分？
① 13 分 ② 14 分 ③ 15 分 。

5. （ ② ）9＋9＝18，9＋8＝17，9＋7＝16，想一想，算式 9＋6 的答案是多少？　① 13 ② 15 ③ 16 。

二　把算式連到正確的答案。

（每題 1 分，共 4 分）

① 8＋5 •		• ㄅ 14
② 5＋6 •	①→ㄆ； ②→ㄈ； ③→ㄅ； ④→ㄇ	• ㄆ 13
③ 7＋7 •		• ㄇ 16
④ 9＋7 •		• ㄈ 11

三　合起來有多少？算算看。

（每格 1 分，共 17 分）

1. 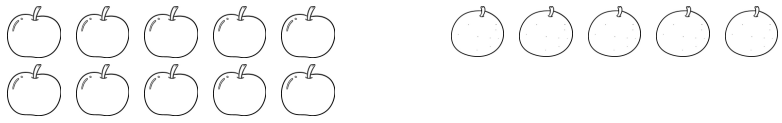

（ 10 ）＋（ 5 ）＝（ 15 ）

有（ 15 ）顆蘋果

2. 

（ 7 ）＋（ 10 ）＝（ 17 ）

有（ 17 ）個甜點

3.

（ 8 ）＋（ 5 ）＝（ 13 ）

有（ 13 ）隻蝴蝶

4.

先數 ，再數 ，

算式記作：4＋（ 7 ）＝（ 11 ）

先數 ，再數 ，

算式記作：7＋（ 4 ）＝（ 11 ）

有（ 11 ）個點心

四　算算看。（每題 1 分，共 6 分）

1. 5＋7＝（ 12 ）　　2. 10＋6＝（ 16 ）

3. 9＋5＝（ 14 ）　　4. 3＋8＝（ 11 ）

5. 7＋6＝（ 13 ）　　6. 5＋6＝（ 11 ）

五　先想一想，再填填看。

（每格 2 分，共 14 分）

1. 4＋8＝12
8＋4＝（ 12 ）

2. 7＋6＝13
6＋7＝（ 13 ）

3. 5＋5＝10
6＋5＝11
7＋5＝（ 12 ）
8＋5＝（ 13 ）

4. 4＋9＝13
4＋8＝（ 12 ）
4＋7＝（ 11 ）
4＋6＝（ 10 ）

六 看圖填出加法算式。

（每格2分，共22分）

1. 

8＋8＝16

8＋9＝（ 17 ）

8＋10＝（ 18 ）

2. 

（ 6 ）＋（ 6 ）＝（ 12 ）

（ 7 ）＋（ 6 ）＝（ 13 ）

（ 8 ）＋（ 6 ）＝（ 14 ）

七 上下算式答案相同的打✓，不同的打╳。（每題2分，共12分）

1. 6＋9 / 9＋6　（ ✓ ）
2. 7＋7 / 8＋6　（ ✓ ）
3. 5＋8 / 5＋9　（ ╳ ）
4. 8＋8 / 7＋9　（ ✓ ）
5. 7＋8 / 10＋9　（ ╳ ）
6. 6＋7 / 2＋9　（ ╳ ）

八 把做法用算式記下來。

（每題2分，共12分）

1. 桌上有4個草莓蛋糕和7個巧克力蛋糕，共有幾個蛋糕？
算式：4＋7＝11

共有（ 11 ）個蛋糕

2. 教室黑板上貼著6個圓形磁鐵和8個長方形磁鐵，共有幾個磁鐵？
算式：6＋8＝14

共有（ 14 ）個磁鐵

3. 王醫生的寵物醫院裡有8隻小狗和4隻小貓，醫院裡共有幾隻動物？
算式：8＋4＝12

共有（ 12 ）隻動物

4. 動物園裡原有8隻無尾熊，後來又引進5隻無尾熊，現在全部共有幾隻無尾熊？
算式：8＋5＝13

共有（ 13 ）隻無尾熊

5. 池塘裡有7隻鴨子，又游來了5隻，現在池塘裡有幾隻鴨子？
算式：7＋5＝12

共有（ 12 ）隻鴨子

6. 婉玉昨天蒐集8張微笑貼紙，今天又蒐集7張微笑貼紙，她一共蒐集了幾張微笑貼紙？
算式：8＋7＝15

一共蒐集了（ 15 ）張

九 挑戰題。（每格1分，共8分）

▲選出正確答案並打✓。

7＋9	7＋8	7＋7	7＋6
3＋9	4＋9	5＋9	6＋9

（1）比 7＋9 答案少1的是 6＋9 和
（ ✓ ）7＋8　（　　）7＋6

（2）和 7＋7 答案相同的是
（　　）6＋9　（ ✓ ）5＋9

（3）比 3＋9 答案多1的是
（ ✓ ）4＋9　（　　）5＋9
（　　）7＋8　（ ✓ ）7＋6
（有2個答案）