_____國小　_____學年度

評量卷　數學領域　一下　範圍：1、20 以內的加法

一　年　_____班　_____號　姓名：_____　得分：_____

一 選出正確的答案。（每題 1 分，共 5 分）

1. （ ② ）「哥哥有 7 個花片，弟弟有 5 個花片，兩個人共有幾個花片？」，下面哪一個是正確的算式和答案？　① 7－5＝2 ② 7＋5＝12 ③ 7＋4＝11。

2. （ ③ ）下面算式中，哪一個的答案和其他算式的答案不同？　① 8＋6 ② 9＋5 ③ 5＋8 。

3. （ ① ）9＋3＝12 的算式中，被加數、加數分別是多少？
① 被加數是 9，加數是 3
② 被加數是 9，加數是 12
③ 被加數是 3，加數是 12。

4. （ ① ）小明到夜市玩棒球九宮格的遊戲，第一球投中 4 分，第二球投中 9 分，小明一共投中幾分？
① 13 分 ② 14 分 ③ 15 分 。

5. （ ② ）9＋9＝18，9＋8＝17，9＋7＝16，想一想，算式 9＋6 的答案是多少？　① 13 ② 15 ③ 16 。

二 把算式連到正確的答案。

（每題 1 分，共 4 分）

① 8＋5	•	•	ㄅ 14
② 5＋6	•	•	ㄆ 13
③ 7＋7	•	•	ㄇ 16
④ 9＋7	•	•	ㄈ 11

①→ㄆ；
②→ㄈ；
③→ㄅ；
④→ㄇ

三 合起來有多少？算算看。

（每格 1 分，共 17 分）

1. 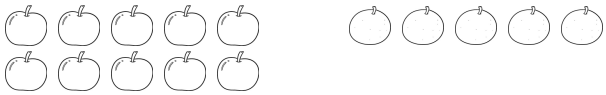

（ 10 ）＋（ 5 ）＝（ 15 ）

有（ 15 ）顆蘋果

2.

（ 7 ）＋（ 10 ）＝（ 17 ）

有（ 17 ）個甜點

3.

（ 8 ）＋（ 5 ）＝（ 13 ）

有（ 13 ）隻蝴蝶

4.

先數，再數，

算式記作：4＋（ 7 ）＝（ 11 ）

先數，再數，

算式記作：7＋（ 4 ）＝（ 11 ）

有（ 11 ）個點心

四 算算看。（每題 1 分，共 6 分）

1. 5＋7＝（ 12 ）　2. 10＋6＝（ 16 ）

3. 9＋5＝（ 14 ）　4. 3＋8＝（ 11 ）

5. 7＋6＝（ 13 ）　6. 5＋6＝（ 11 ）

五 先想一想，再填填看。

（每格 2 分，共 14 分）

1. 4＋8＝12
8＋4＝（ 12 ）

2. 7＋6＝13
6＋7＝（ 13 ）

3. 5＋5＝10
6＋5＝11
7＋5＝（ 12 ）
8＋5＝（ 13 ）

4. 4＋9＝13
4＋8＝（ 12 ）
4＋7＝（ 11 ）
4＋6＝（ 10 ）

六 看圖填出加法算式。

（每格 2 分，共 22 分）

1. 

8＋8＝16

8＋9＝(17)

8＋10＝(18)

2. 

(6)＋(6)＝(12)

(7)＋(6)＝(13)

(8)＋(6)＝(14)

七 上下算式答案相同的打✓，不同的打╳。（每題 2 分，共 12 分）

1. 6＋9 / 9＋6 (✓)
2. 7＋7 / 8＋6 (✓)
3. 5＋8 / 5＋9 (╳)
4. 8＋8 / 7＋9 (✓)
5. 7＋8 / 10＋9 (╳)
6. 6＋7 / 2＋9 (╳)

八 把做法用算式記下來。

（每題 2 分，共 12 分）

1. 桌上有 4 個草莓蛋糕和 7 個巧克力蛋糕，共有幾個蛋糕？

算式：4＋7＝11

共有(11)個蛋糕

2. 教室黑板上貼著 6 個圓形磁鐵和 8 個長方形磁鐵，共有幾個磁鐵？

算式：6＋8＝14

共有(14)個磁鐵

3. 王醫生的寵物醫院裡有 8 隻小狗和 4 隻小貓，醫院裡共有幾隻動物？

算式：8＋4＝12

共有(12)隻動物

4. 動物園裡原有 8 隻無尾熊，後來又引進 5 隻無尾熊，現在全部共有幾隻無尾熊？

算式：8＋5＝13

共有(13)隻無尾熊

5. 池塘裡有 7 隻鴨子，又游來了 5 隻，現在池塘裡有幾隻鴨子？

算式：7＋5＝12

共有(12)隻鴨子

6. 婉玉昨天蒐集 8 張微笑貼紙，今天又蒐集 7 張微笑貼紙，她一共蒐集了幾張微笑貼紙？

算式：8＋7＝15

一共蒐集了(15)張

九 挑戰題。（每格 1 分，共 8 分）

▲選出正確答案並打✓。

7＋9	7＋8	7＋7	7＋6
3＋9	4＋9	5＋9	6＋9

(1) 比 7＋9 答案少 1 的是 6＋9 和
(✓) 7＋8　　( ) 7＋6

(2) 和 7＋7 答案相同的是
( ) 6＋9　　(✓) 5＋9

(3) 比 3＋9 答案多 1 的是
(✓) 4＋9　　( ) 5＋9
( ) 7＋8　　(✓) 7＋6
(有 2 個答案)