翰林B　數學　第2單元　答案　（1／2）

＿＿＿＿國小　＿＿＿＿學年度

評量卷　數學領域　一下　範圍：2、長度

一　年　＿＿＿班　＿＿＿號　姓名：＿＿＿＿＿＿　得分：＿＿＿＿＿＿

一　勾選題。（每格 1 分，共 10 分）

1. 哪一邊比較長？在（　）裡打✓。

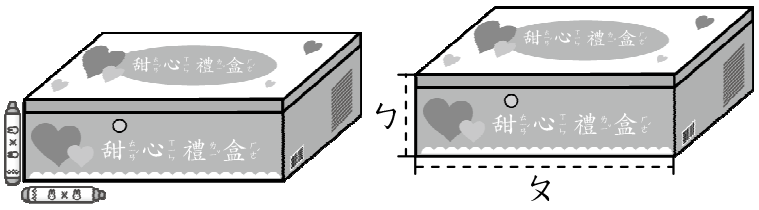

ㄅ（　　）　　ㄆ（ ✓ ）

2. 哪一邊比較短？在（　）裡打✓。

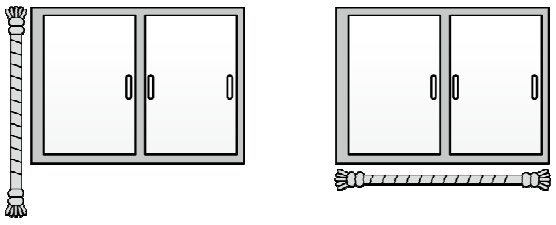

ㄅ（　　）

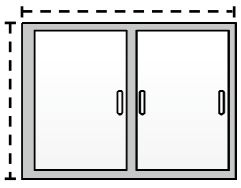

ㄆ（ ✓ ）

3. 正確的在（　）裡打✓。

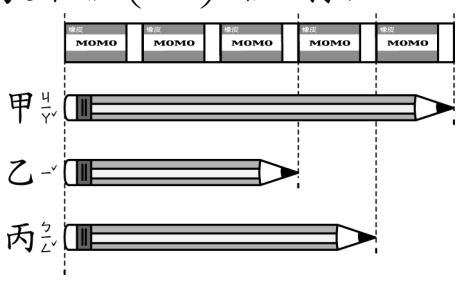

（1）（ ✓ ）甲鉛筆比丙鉛筆長。
（2）（ ✓ ）乙鉛筆比丙鉛筆短。
（3）（　　）甲鉛筆比乙鉛筆短。

4. 哥哥和弟弟每天走路上學，上學走ㄅ路線，放學回家走ㄆ路線，從學校到家裡，哪一條路線比較短？在（　）裡打✓。

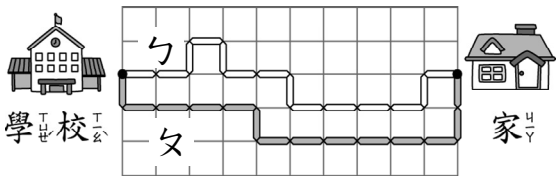

ㄅ（　　）　ㄆ（　　）　一樣短（ ✓ ）

二　看圖做做看。（每答 2 分，共 46 分）

1. 繩子打開後和（ 6 ）個木條一樣長。

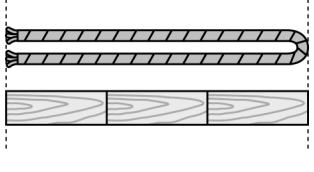

2. 一棵聖誕樹大約和（ 6 ）個禮物盒一樣高。



3.

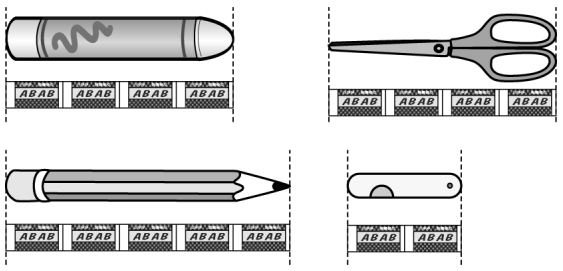

（1）一枝 和（ 4 ）塊 一樣長。
（2）一把 和（ 2 ）塊 一樣長。
（3）一枝 和一把 接起來和（ 7 ）塊 一樣長。
（4）一把 和（ 2 ）把 一樣長。

4.

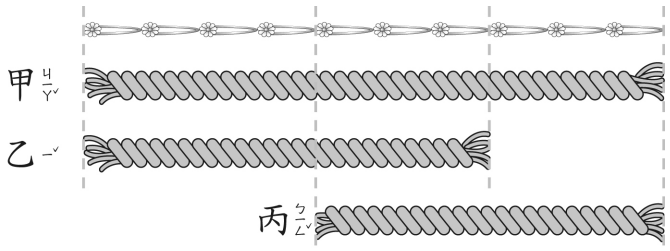

（1）甲繩子和（ 10 ）個髮夾一樣長。
（2）乙繩子和（ 7 ）個髮夾一樣長。
（3）丙繩子和（ 6 ）個髮夾一樣長。
（4）甲繩子剪去 6 個髮夾的長度後，剩下的繩子和（ 4 ）個髮夾一樣長。

5. 先數一數，再圈圈看。

丹丹　 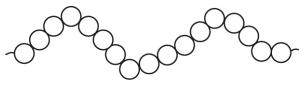 　（ 17 ）個

皮皮　 　（ 15 ）個

多多　 　（ 14 ）個

（丹丹，皮皮，多多）的手鍊拉直後最長。

6.

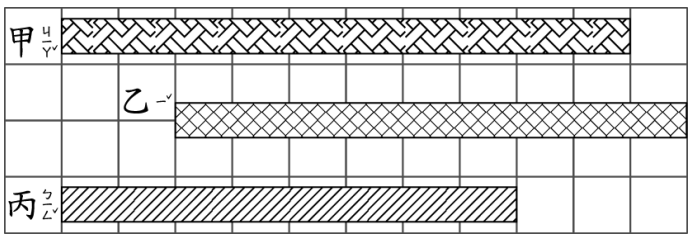

(1) 甲緞帶有（ 10 ）格長，乙緞帶有（ 9 ）格長，丙緞帶有（ 8 ）格長。

(2) 最長的緞帶比最短的緞帶多了（ 2 ）格長。

7. 數一數，小動物回家需要經過幾個地磚？先填填看，再把距離家最短的圈起來。

（ 6 ）個地磚

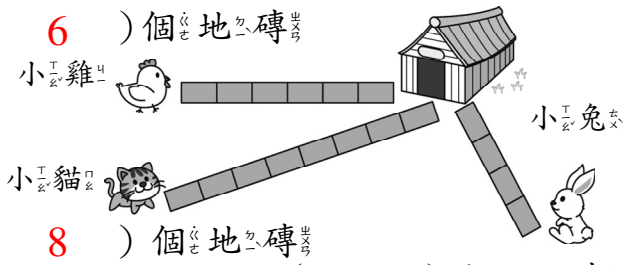

（ 8 ）個地磚

（ 4 ）個地磚

距離家最短的是

（小雞，小貓，小兔）

8. 自動鉛筆比水彩筆少（ 3 ）支髮夾長。

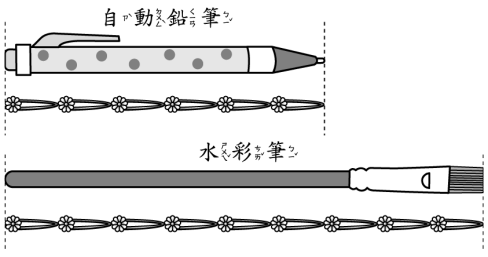

三 看圖算算看，要走幾塊磁磚？

（每答2分，共8分）

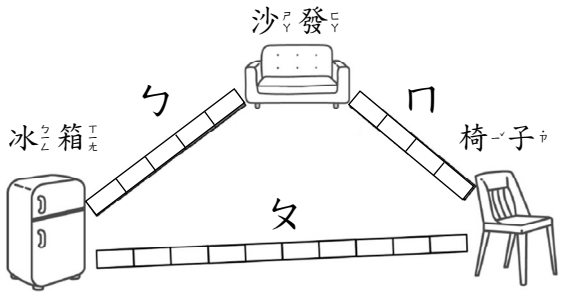

1. 從冰箱走ㄅ路線到沙發，要走（ 5 ）塊磁磚。
2. 從椅子走ㄇ路線到沙發，要走（ 4 ）塊磁磚。
3. 從冰箱走ㄆ路線到椅子，再走ㄇ路線到沙發，要走幾塊磁磚？

算式：10＋4＝14

要走（ 14 ）塊磁磚

四 看圖寫出算式做做看。

（每答4分，共24分）

1. 美工刀和橡皮擦合起來和幾支大頭針一樣長？

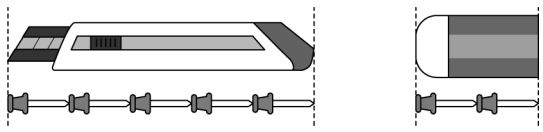

算式：5＋2＝7

和（ 7 ）支大頭針一樣長

2. 一條繩子和6枝鉛筆一樣長，把這條繩子剪掉3枝鉛筆的長度，會和幾枝鉛筆一樣長？

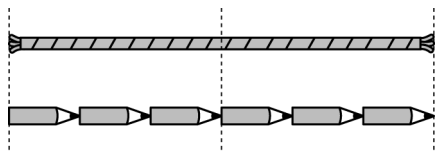

算式：6－3＝3

和（ 3 ）枝鉛筆一樣長

3. 把 剪掉一段和 一樣長的長度，剩下的和幾個 一樣長？

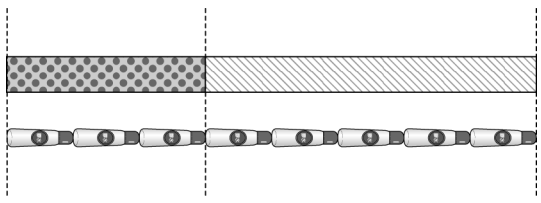

算式：5－3＝2

和（ 2 ）個 一樣長

五 挑戰題。（每題4分，共12分）

▲「噹！噹！噹！」放學的鐘聲響起了，小朋友們準備回家。小丸子今天自己要走回家，她記得有3條路線可以回家。

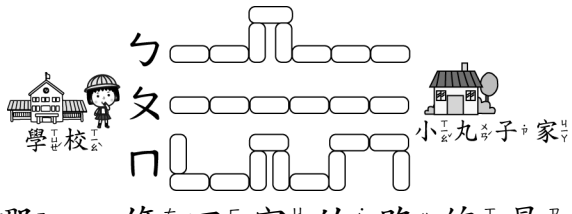

(1) 哪一條回家的路線最長？

（ㄅ，ㄆ，ㄇ）

(2) 哪一條回家的路線最短？

（ㄅ，ㄆ，ㄇ）

(3) 小丸子想早點回家看卡通，要選哪一條路線，才可以最快回家？（ ㄆ ）（填入代號）