翰林B　數學　第3單元　答案　（1／2）

＿＿＿＿國小　＿＿＿＿學年度

評量卷　數學領域　一下　範圍：3、20以內的減法

一　年　＿＿＿班　＿＿＿號　姓名：＿＿＿＿＿＿　得分：＿＿＿＿＿＿

一　選出正確的答案。（每題3分，共9分）

1. （ ② ）「一盒鳳梨酥有12塊，弟弟吃掉了7塊，還剩下幾塊？」哪一個是正確的算式？　① 12＋7＝19　② 12－7＝5　③ 12－5＝7。
2. （ ③ ）算式14－5＝9中，9稱為　① 被減數　② 減數　③ 差。
3. （ ① ）小美和小麗比賽編花環，小美編了8個，小麗編了13個，小美比小麗少編幾個？　① 5個　② 6個　③ 7個。

二　看圖填填看。（每格1分，共11分）

1. 還剩下多少顆蘋果？



18－9＝（ 9 ）

剩下（ 9 ）顆蘋果

2. 還剩下多少顆草莓？

(1)



17－7＝（ 10 ）

剩下（ 10 ）顆草莓

(2)



16－（ 7 ）＝（ 9 ）

剩下（ 9 ）顆草莓

3. 甜甜圈比漢堡多幾個？



15－7＝（ 8 ）　多（ 8 ）個

4. 一個蛋糕配一瓶果汁，蛋糕不夠幾個？

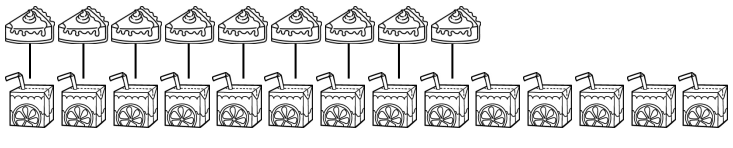

14－9＝（ 5 ）　不夠（ 5 ）個

三　算算看。（每題2分，共12分）

1. 16－8＝（ 8 ）　2. 14－5＝（ 9 ）

3. 12－8＝（ 4 ）　4. 13－6＝（ 7 ）

5. 15－4＝（ 11 ）　6. 15－9＝（ 6 ）

四　先想一想，再填填看。（每答1分，共20分）

1.
13－4＝9
12－4＝8
11－4＝（ 7 ）
10－4＝（ 6 ）
9－4＝（ 5 ）

2.
13－6＝7
14－6＝8
15－6＝（ 9 ）
16－6＝（ 10 ）
17－6＝（ 11 ）

3.
14－5＝9
14－6＝8
14－7＝（ 7 ）
14－8＝（ 6 ）
14－9＝（ 5 ）

4.
18－8＝10
18－7＝11
18－6＝（ 12 ）
18－5＝（ 13 ）
18－4＝（ 14 ）

5. 找出正確的算式並填入代號，觀察這些算式的哪一個數相同。((2)答案順序可交換)

ㄅ 17－9	ㄆ 11－6	ㄇ 16－9
ㄈ 12－7	ㄉ 18－9	ㄊ 10－5

(1)（ ㄉ ）＝9
（ ㄅ ）＝8
（ ㄇ ）＝7
這些算式的哪一個數相同？圈圈看。
（被減數，減數，差）

(2)（ ㄆ ）＝5
（ ㄈ ）＝5
（ ㄊ ）＝5
這些算式的哪一個數相同？圈圈看。
（被減數，減數，差）

五 琪琦、津金、竇竇和莎莎一起蒐集彩色彈珠。圈一圈，做做看。（每答2分，共18分）

▲ 琪琦有9顆彩色彈珠，津金有13顆彩色彈珠，竇竇有15顆彩色彈珠，莎莎有14顆彩色彈珠。

(1)琪琦和津金的彈珠誰比較多？多幾顆？

算式：13－9＝4

（琪琦，津金）的彈珠比較多，多（　4　）顆

(2)津金和竇竇的彈珠誰比較少？少幾顆？

算式：15－13＝2

（津金，竇竇）的彈珠比較少，少（　2　）顆

(3)琪琦和莎莎的彈珠誰比較少？少幾顆？

算式：14－9＝5

（琪琦，莎莎）的彈珠比較少，少（　5　）顆

六 把做法用算式記下來。（每題3分，共24分）

1. 奇奇班上有14個男生和8個女生，男生比女生多幾個人？

算式：14－8＝6

多（　6　）個人

2. 公車上原有15個乘客，有7個人下車後，還剩下幾個乘客？

算式：15－7＝8

還剩下（　8　）個乘客

3. 盤子上有4個甜甜圈和13個紅豆餅，甜甜圈比紅豆餅少幾個？

算式：13－4＝9

少（　9　）個

4. 老師把8顆球發給16個同學，每個人要拿一顆，球不夠幾顆？

算式：16－8＝8

不夠（　8　）顆球

5. 健怡有11張貼紙，嘉銘有9張貼紙，兩人的貼紙相差幾張？

算式：11－9＝2

相差（　2　）張

6. 妞妞昨天做17題數學練習題，今天做了9題，昨天比今天多做了幾題？

算式：17－9＝8

多做了（　8　）題

7. 小梅做了12顆梅子果凍，一共吃了3顆，還剩下幾顆？

算式：12－3＝9

還剩下（　9　）顆

8. 高鐵接駁車上原有16個乘客，到站時有4個乘客下車，車上還剩下幾個乘客？

算式：16－4＝12

還剩下（　12　）個乘客

七 挑戰題。（每個1分，共6分）

▲ 選出正確答案並圈起來。（答案不只1個）

18－9	18－8	18－7	18－6
17－9	17－8	17－7	17－6
16－9	16－8	16－7	16－6

(1)和 16－6 答案相同的有

（17－7，18－8，18－9）

(2)比 17－9 答案多1的有

（18－9，16－8，17－8）