_____國小　_____學年度

評量卷　數學領域　一下　範圍：3、20 以內的減法

一　年　_____班　_____號　姓名：_____　得分：_____

一 選出正確的答案。(每題 3 分，共 9 分)

1. (②) 「一盒鳳梨酥有 12 塊，弟弟吃掉了 7 塊，還剩下幾塊？」哪一個是正確的算式？ ① 12＋7＝19 ② 12－7＝5 ③ 12－5＝7。
2. (③) 算式 14－5＝9 中，9 稱為 ① 被減數 ② 減數 ③ 差。
3. (①) 小美和小麗比賽編花環，小美編了 8 個，小麗編了 13 個，小美比小麗少編幾個？ ① 5 個 ② 6 個 ③ 7 個。

二 看圖填填看。(每格 1 分，共 11 分)

1. 還剩下多少顆蘋果？



18－9＝(9)

剩下(9)顆蘋果

2. 還剩下多少顆草莓？

(1)

17－7＝(10)

剩下(10)顆草莓

(2)



16－(7)＝(9)

剩下(9)顆草莓

3. 甜甜圈比漢堡多幾個？



15－7＝(8)　　多(8)個

4. 一個蛋糕配一瓶果汁，蛋糕不夠幾個？

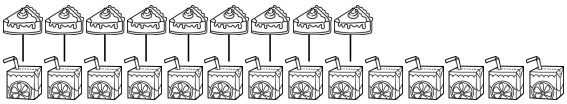

14－9＝(5)　　不夠(5)個

三 算算看。(每題 2 分，共 12 分)

1. 16－8＝(8)　2. 14－5＝(9)

3. 12－8＝(4)　4. 13－6＝(7)

5. 15－4＝(11)　6. 15－9＝(6)

四 先想一想，再填填看。(每答 1 分，共 20 分)

1.
13－4＝9
12－4＝8
11－4＝(7)
10－4＝(6)
9－4＝(5)

2.
13－6＝7
14－6＝8
15－6＝(9)
16－6＝(10)
17－6＝(11)

3.
14－5＝9
14－6＝8
14－7＝(7)
14－8＝(6)
14－9＝(5)

4.
18－8＝10
18－7＝11
18－6＝(12)
18－5＝(13)
18－4＝(14)

5. 找出正確的算式並填入代號，觀察這些算式的哪一個數相同。((2)答案順序可交換)

ㄅ 17－9	ㄆ 11－6	ㄇ 16－9
ㄈ 12－7	ㄉ 18－9	ㄊ 10－5

(1) (ㄉ)＝9
(ㄅ)＝8
(ㄇ)＝7
這些算式的哪一個數相同？圈圈看。
(被減數，減數，差)

(2) (ㄆ)＝5
(ㄈ)＝5
(ㄊ)＝5
這些算式的哪一個數相同？圈圈看。
(被減數，減數，差)

五

琪琦、津金、竇竇和莎莎一起蒐集彩色彈珠。圈一圈，做做看。（每答 2 分，共18 分）

▲ 琪琦有 9 顆彩色彈珠，津金有 13 顆彩色彈珠，竇竇有 15 顆彩色彈珠，莎莎有 14 顆彩色彈珠。

(1)琪琦和津金的彈珠誰比較多？多幾顆？

算式：13－9＝4

（琪琦，津金）的彈珠比較多，多（ 4 ）顆

(2)津金和竇竇的彈珠誰比較少？少幾顆？

算式：15－13＝2

（津金，竇竇）的彈珠比較少，少（ 2 ）顆

(3)琪琦和莎莎的彈珠誰比較少？少幾顆？

算式：14－9＝5

（琪琦，莎莎）的彈珠比較少，少（ 5 ）顆

六

把做法用算式記下來。

（每題 3 分，共 24 分）

1. 奇奇班上有 14 個男生和 8 個女生，男生比女生多幾個人？

算式：14－8＝6

多（ 6 ）個人

2. 公車上原有 15 個乘客，有 7 個人下車後，還剩下幾個乘客？

算式：15－7＝8

還剩下（ 8 ）個乘客

3. 盤子上有 4 個甜甜圈和 13 個紅豆餅，甜甜圈比紅豆餅少幾個？

算式：13－4＝9

少（ 9 ）個

4. 老師把 8 顆球發給 16 個同學，每個人要拿一顆，球不夠幾顆？

算式：16－8＝8

不夠（ 8 ）顆球

5. 健怡有 11 張貼紙，嘉銘有 9 張貼紙，兩人的貼紙相差幾張？

算式：11－9＝2

相差（ 2 ）張

6. 妞妞昨天做 17 題數學練習題，今天做了 9 題，昨天比今天多做了幾題？

算式：17－9＝8

多做了（ 8 ）題

7. 小梅做了 12 顆梅子果凍，一共吃了 3 顆，還剩下幾顆？

算式：12－3＝9

還剩下（ 9 ）顆

8. 高鐵接駁車上原有 16 個乘客，到站時有 4 個乘客下車，車上還剩下幾個乘客？

算式：16－4＝12

還剩下（ 12 ）個乘客

七

挑戰題。（每個 1 分，共 6 分）

▲選出正確答案並圈起來。

（答案不只 1 個）

18－9	18－8	18－7	18－6
17－9	17－8	17－7	17－6
16－9	16－8	16－7	16－6

(1)和 16－6 答案相同的有

（17－7，18－8，18－9）

(2)比 17－9 答案多 1 的有

（18－9，16－8，17－8）