_____國小　_____學年度

評量卷　數學領域　一下　範圍：4、100 以內的數

一　年　_____班　_____號　姓名：_____　得分：_____

一　看圖填填看。（每格 1 分，共 8 分）

1.

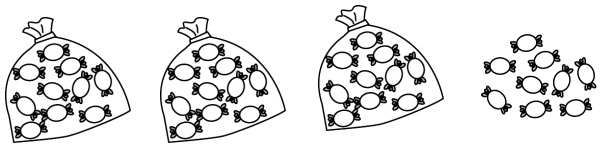

共有（ 39 ）顆糖果，

再多 1 顆，共（ 40 ）顆糖果；

再多 10 顆，共（ 50 ）顆糖果。

2.

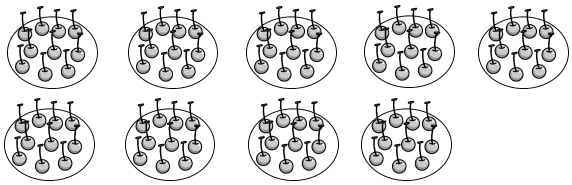

共有（ 90 ）顆櫻桃，

拿走 10 顆，剩（ 80 ）顆櫻桃；

再拿走 1 顆，剩（ 79 ）顆櫻桃。

3. 橘子一袋 5 顆。



有（ 35 ）顆橘子

4. 棒棒糖一組 2 枝。



有（ 28 ）枝棒棒糖

二　按照數的順序填填看。（每格 1 分，共 17 分）

1. 47 — 48 — 49 — 50 — 51 — 52 — 53

2. 40 — 50 — 60 — 70 — 80 — 90 — 100

3. 67 — 57 — 47 — 37 — 27 — 17 — 7

4. 70 — 72 — 74 — 76 — 78 — 80 — 82

5. 30 — 35 — 40 — 45 — 50 — 55 — 60

三　先把 10 個、10 個圈起來，再數數看，有多少。（每答 1 分，共 4 分）

1.

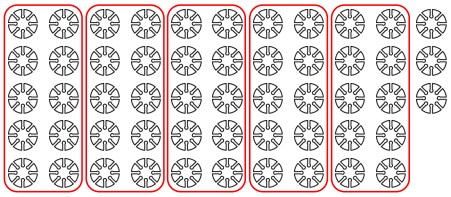

（圈法僅供參考）

有（ 53 ）個花片

2.

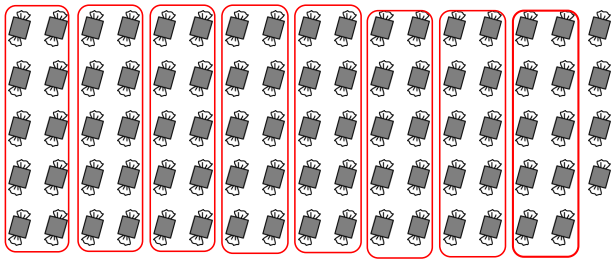

有（ 84 ）顆軟糖

四　做做看。（每答 1 分，共 14 分）

1. 先在（　）裡寫出積木表示的數，再將比較大的數在□裡打✓。

（1）

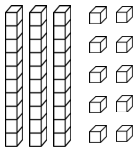

（ 40 ）

（2）

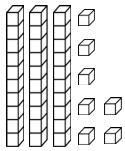

（ 37 ）

2. 把比較大的數圈起來。

（1）

（2）



3. 把比 65 小的數圈起來。

（46，59，71，38，82）

4. 把比 50 大的數圈起來。

（34，68，94，27，45）

5. 觀察右邊的圖，圈一圈再填填看。

62	63	64	65
72	73	74	75
82	83	84	85
92	93	94	95

（1）從 62 開始往下數，下面的數比上面的數（增加，減少）（ 10 ）。

（2）從 62 開始往右數，右邊的數比左邊的數（增加，減少）（ 1 ）。

五 先將數字記在位值表上，再回答問題。(每答 1 分，共 10 分)

1. 小圓摺了 47 個星星，小圖摺了 40 個星星，誰摺的星星比較少？

小圓

十位	個位
4	7

小圖

十位	個位
4	0

(小圓，小圖)摺的星星比較少。

2. 小威和小茹採草莓，小威採了 63 顆草莓，小茹採了 59 顆草莓，誰採的草莓比較多？

小威

十位	個位
6	3

小茹

十位	個位
5	9

(小威，小茹)採的草莓比較多。

六 填填看。(每答 1 分，共 41 分)

1. 下面全部的積木和幾個一樣多？記在位值表上。

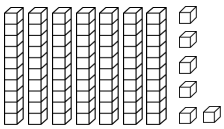

十位	個位
7	6

2. 6 個十和 13 個一可以合成
(7)個十和(3)個一。
(答案填入 1～9)

3. 10 塊餅乾裝成一袋，姐姐買了 4 袋又 17 塊。
(1) 17 塊能裝成 1 袋又(7)塊。
(2) 4 個十和 17 個一，合起來與 5 個十和(7)個一一樣多，是(57)。
(3) 記在位值表上。

十位	個位
5	7

4. 每捆有 10 枝鉛筆，先數數看有幾枝鉛筆，再記在位值表上。

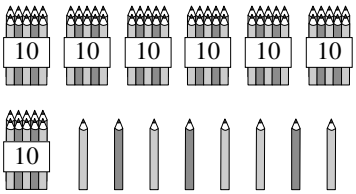

十位	個位
7	8

有(7)捆和(8)枝，
合起來有(78)枝。

5. 下面是百數表的一部分，填入正確的數。

(1)

48	49	50
	59	
68	69	70

(2)

28	29	30
38	39	
48		

6. 將百數表中的空白部分填上數字。

								9	
								19	
			24			27	28	29	30
31	32	33	34	35	36		38		
			44						
			54						
71							78		80
81	82					87	88	89	90
91	92	93						99	100

7. 姐姐有 50 枝蠟筆，拿走 10 枝，還有(40)枝；再拿走 10 枝，還有(30)枝蠟筆。

8. 弟弟有 30 張色紙，拿走 1 張，還有(29)張；再拿走 1 張，還有(28)張色紙。

七 挑戰題。(每格 2 分，共 6 分)

1. 在位值表上填入一個比 93 大的數。 (答案為 94～99 的任一數)

十位	個位
9	3

十位	個位

2. 爸爸買了好多可樂，他將 24 罐可樂放進冰箱裡，其他的放在冰箱外面，如下圖。爸爸一共買了幾罐可樂？

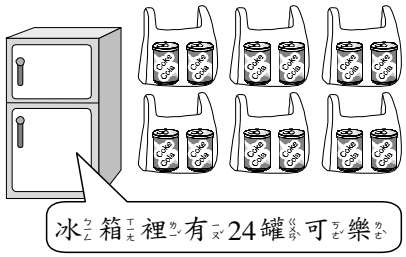

共買了 (36) 罐可樂