翰林B　數學　第6單元　答案　（1／2）

＿＿＿＿國小　＿＿＿＿學年度

評量卷　數學領域　一下　範圍：6、數數看有多少元

一　年　＿＿＿班　＿＿＿號　姓名：＿＿＿＿＿＿　得分：＿＿＿＿＿＿

一　選出正確的答案。(每題3分，共9分)

1. （ ② ）20個 可以換幾個 ？
   ① 2個　② 4個　③ 6個。

2. （ ③ ）小紅買一個樂高積木付了 ，是付了多少元？
   ① 15元　② 50元　③ 55元。

3. （ ② ）小萍想買一個80元的魔術方塊，全部用 付，要付幾個 ？
   ① 7個　② 8個　③ 9個。

二　看圖做做看。(每答2分，共32分)

1. 數數看，撲滿裡有多少元？

(1)

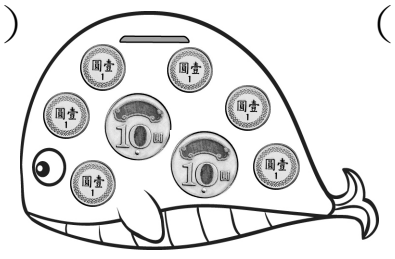

（ 26 ）元

(2)

（ 37 ）元

(3)

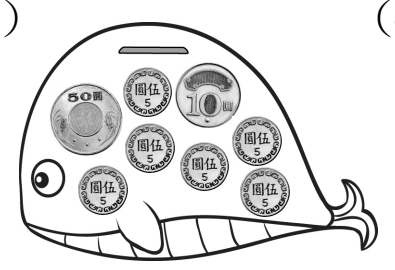

（ 90 ）元

(4)

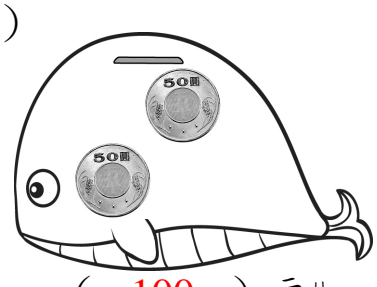

（ 100 ）元

2. 哪一個撲滿裡的錢比較多？在(　　)裡打✓。

(1)



（ ✓ ）

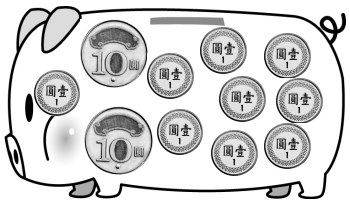

（　　）

(2)

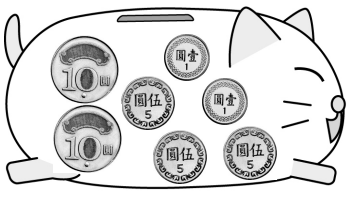

（　　）

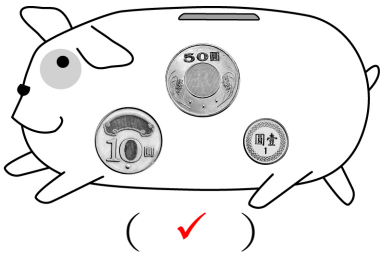

（ ✓ ）

（(2)圈法僅供參考）

3. 圈出和盤子上一樣多的錢。

(1)

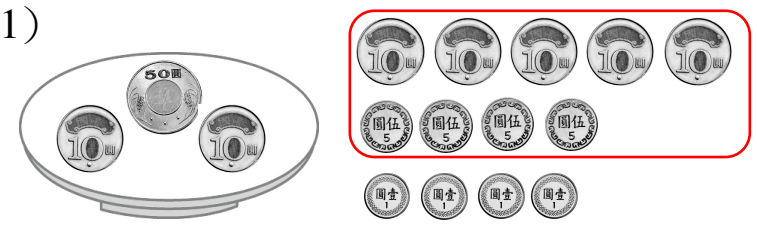

(2)

4. 莎莎想買一個玩具小火車，可以怎麼付錢？

(1)全部用 付，要付（ 3 ）個 。

(2)全部用 付，要付（ 6 ）個 。

5. 先數數看，有多少元？再把比較多的在□裡打✓。

(1)		（ 29 ）元	✓
(2)		（ 23 ）元	□

6. 宇駿想買一盒49元的水彩，下面是他的錢，他的錢夠嗎？

宇駿的錢（ 夠 ，　不夠 ）。

7. 哥哥有59元，想買一碗65元的鍋燒意麵，還要補多少元才會剛好？用① 畫出來。

① ① ① ① ① ①

還要補（ 6 ）元

三 把一樣多的錢連起來。

(每條線 3 分，共 9 分)

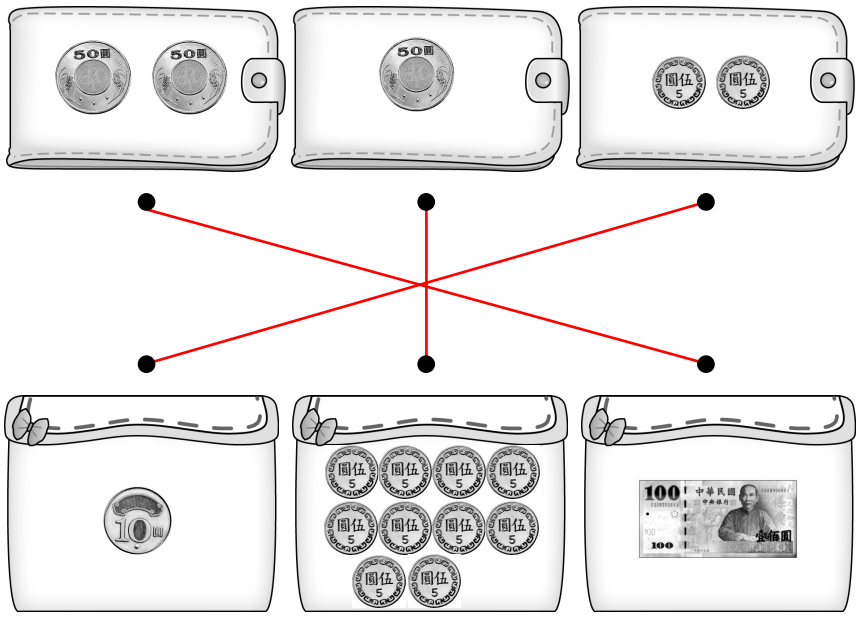

四 圈圈看。(每題 3 分，共 6 分)

1. 下面的錢可以買哪一個玩偶？

2. 一個玩具車賣 80 元，哪一個錢包裡的錢夠買一個玩具車？

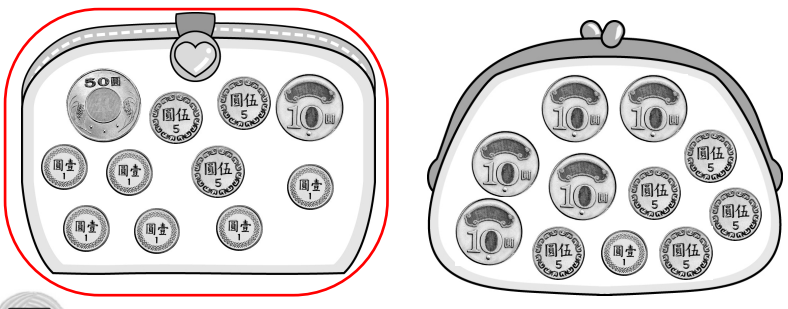

五 三兄妹買早餐都花了 65 元，怎麼付錢才會剛好？圈圈看。

(每題 4 分，共 12 分)（圈法僅供參考）

1.

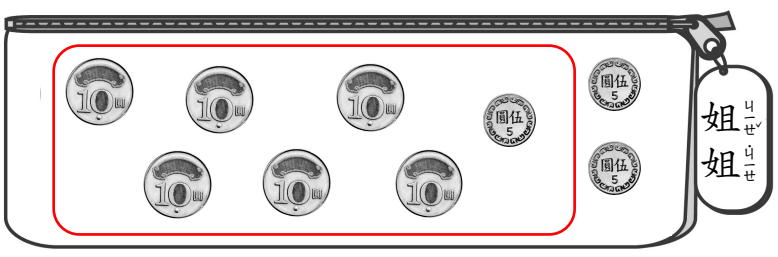

2.

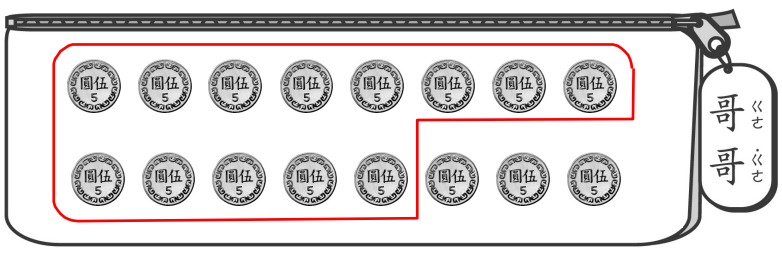

3.

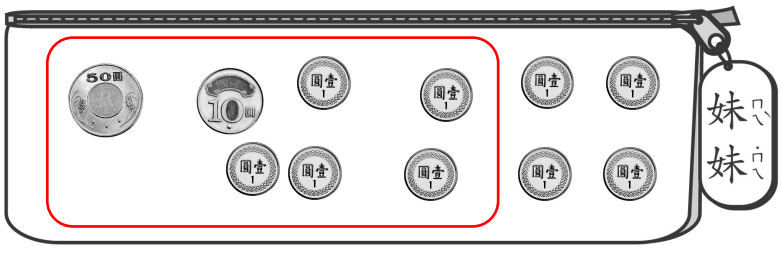

六 下面是早餐店的餐點價格，看圖回答問題。(每答 4 分，共 24 分)

蛋堡	熱狗堡	牛肉蛋堡	鮮奶茶
			
69 元	58 元	85 元	39 元

1. 買一杯 ，要付 3 個 和

（ 9 ）個 才會剛好。

2. 小潔有 6 個 ，是（ 60 ）元，她的錢夠買哪一種餐點？圈圈看。

（ ， ，  ）

3. 伶伶有 7 個 和 3 個 ，她的錢不夠買哪一種餐點？圈圈看。

（  ， ，  ）

4. 約翰有 6 個 ，想買一個



，不夠多少元？用 ① 畫出來。

① ① ① ① ① ① ① ① ①

不夠（ 9 ）元

七 挑戰題。(每題 4 分，共 8 分)

1. 辰辰有 23 元，要買一碗 35 元的乾麵，姐姐要再給他幾個 才夠？

（ 2 ）個

2. 美美有 21 元，要買一碗 30 元的貢丸湯，爸爸要再給她幾個 才夠？

（ 2 ）個