翰林B　數學　第8單元　答案　（1／2）

＿＿＿＿＿國小　＿＿＿＿學年度

評量卷　數學領域　一下　範圍：8、兩位數的加減法

一　年　＿＿＿班　＿＿＿號　姓名：＿＿＿＿＿＿＿　得分：＿＿＿＿＿

一　看圖算算看。（每格 2 分，共 6 分）

1.

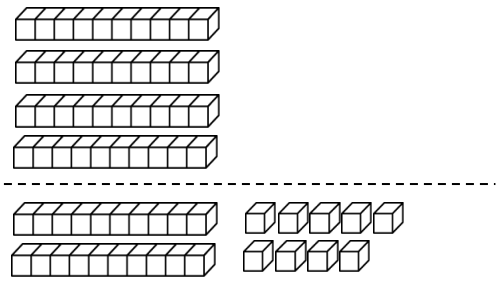

40＋29＝（　69　）

2.

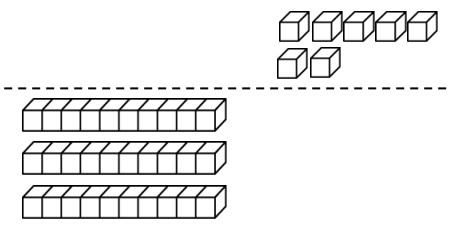

7＋30＝（　37　）

3.

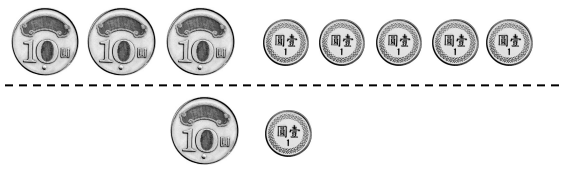

35＋11＝（　46　）

二　先畫一畫、圈一圈，再算算看。（每答 2 分，共 22 分）（畫法、圈法僅供參考）

1.

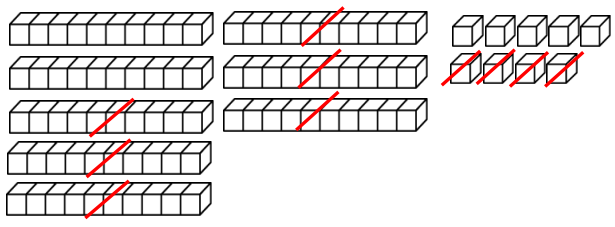

89－64＝（　25　）

2.

49－8＝（　41　）

3.

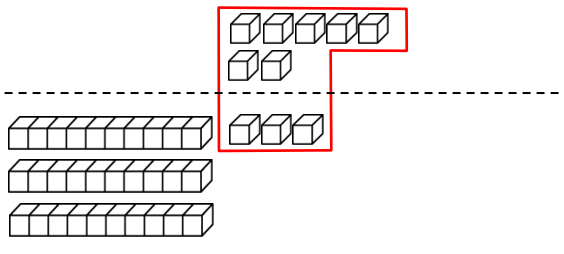

7＋（　33　）＝（　40　）

4.

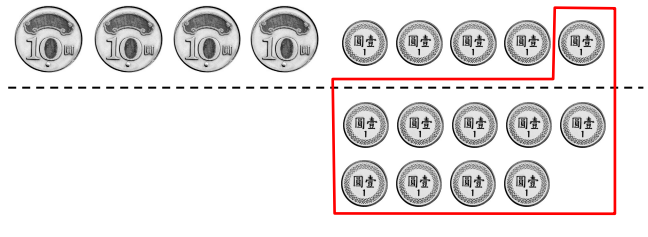

（　45　）＋（　9　）＝（　54　）

三　畫⑩和①算算看。（畫法僅供參考）（每題 2 分，共 12 分）

1. 27＋32＝（　59　）

⑩⑩　①①①①①
①①
⑩⑩⑩　①①

2. 33＋9＝（　42　）

⑩⑩⑩　①①①
①①①①①
①①①①

3. 4＋58＝（　62　）

①①①①
⑩⑩⑩　①①①①①
⑩⑩　①①①

4. 40－9＝（　31　）

⑩⑩⑩⑩
①①①①①
①①①①①

5. 60－20＝（　40　）

⑩⑩⑩⑩⑩
⑩

6. 57－5＝（　52　）

⑩⑩⑩⑩⑩
①①①①①
①①

四　做做看。（每答 2 分，共 20 分）

1. 把算式連到正確的答案。

(1) 53－30	(2) 67－25	(3) 8＋15

(1)→ㄅ；(2)→ㄆ；(3)→ㄅ；

ㄅ 23　　ㄆ 42

(4)→ㄆ；(5)→ㄆ；(6)→ㄅ

(4) 83－41	(5) 31＋11	(6) 30－7

2. 將答案比較大的算式圈起來。

(1)　78－6　78－5

(2)　39－6　27－6

(3)　29－17　29－18

(4)　63－3　66－3

五 寫出算式做做看。（每題3分，共12分）

1. 小花有45張獎卡，老師再給她22張，小花共有幾張獎卡？

算式：45＋22＝67

共有（　67　）張獎卡

2. 小傑七月到圖書館借了8本書，八月借了17本書，兩個月共借了幾本書？

算式：8＋17＝25

共借了（　25　）本書

3. 弟弟有68顆彈珠，哥哥有53顆彈珠，弟弟比哥哥多幾顆彈珠？

算式：68－53＝15

多（　15　）顆彈珠

4. 又綸原有84元，花了5元後，還剩下多少元？

算式：84－5＝79

還剩下（　79　）元

六 看圖做做看，再用算式記下來。（每題4分，共8分）



1. 翔翔買了一輛 和一隻 ，要付多少元？

算式：25＋52＝77

要付（　77　）元

2. 買一隻 比買一顆 ，要多付幾元？

算式：35－14＝21

多付（　21　）元

七 先畫⑩和①，再用算式記下來。

（每題3分，共12分）（畫法僅供參考）

1. 東東有27顆糖果，老師又給他4顆，東東現在有多少顆糖果？

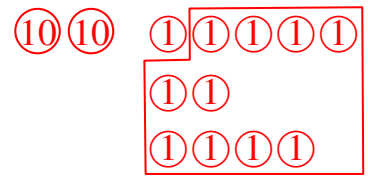

算式：27＋4＝31

有（　31　）顆糖果

2. 一盒馬卡龍有56顆，姐姐生日帶一盒馬卡龍請同學們吃，同學們共吃了44顆，還剩下幾顆馬卡龍？

算式：56－44＝12

還剩下（　12　）顆馬卡龍

3. 媽媽買了40隻炸蝦，吃了3隻，剩下幾隻炸蝦？

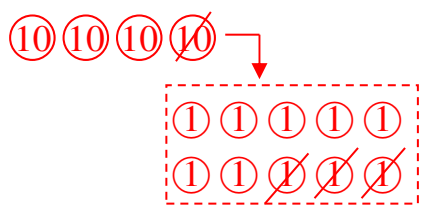

算式：40－3＝37

剩下（　37　）隻炸蝦

4. 小露有21朵玫瑰花，送給老師6朵，還有幾朵玫瑰花？

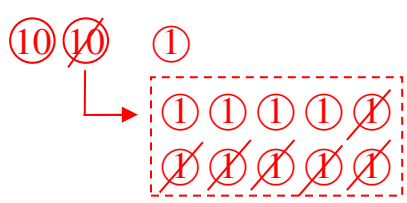

算式：21－6＝15

還有（　15　）朵玫瑰花

八 挑戰題。（每格4分，共8分）

▲88－53＝35

88－3＝（　85　）

88－43＝（　45　）