_____國小　_____學年度

評量卷　數學領域　一下　範圍：8、兩位數的加減法

一　年　_____班　_____號　姓名：_____　得分：_____

一 看圖算算看。（每格 2 分，共 6 分）

1.

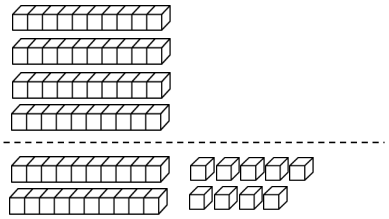

40＋29＝（ 69 ）

2.

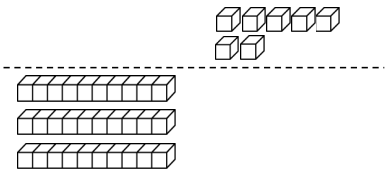

7＋30＝（ 37 ）

3.

35＋11＝（ 46 ）

二 先畫一畫、圈一圈，再算算看。（每答 2 分，共 22 分）（畫法、圈法僅供參考）

1.

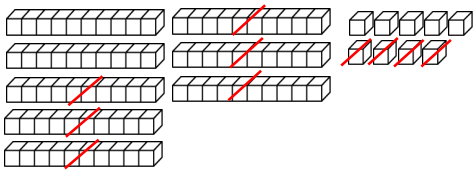

89－64＝（ 25 ）

2.

49－8＝（ 41 ）

3.

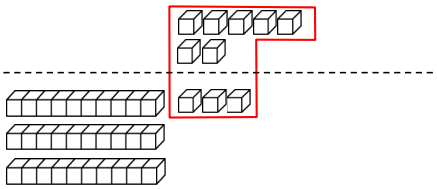

7＋（ 33 ）＝（ 40 ）

4.

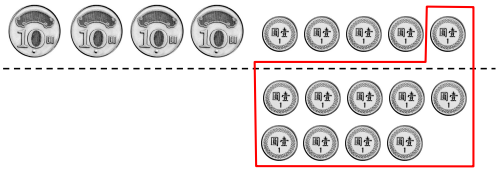

（ 45 ）＋（ 9 ）＝（ 54 ）

三 畫⑩和①算算看。（畫法僅供參考）（每題 2 分，共 12 分）

1. 27＋32＝（ 59 ）



2. 33＋9＝（ 42 ）

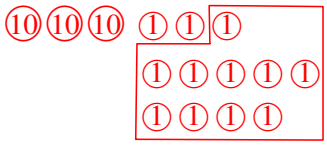

3. 4＋58＝（ 62 ）

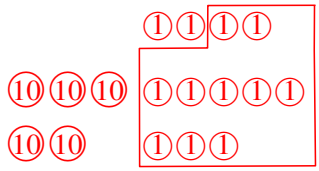

4. 40－9＝（ 31 ）

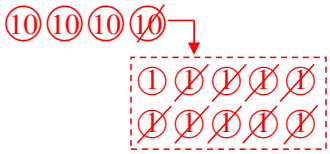

5. 60－20＝（ 40 ）

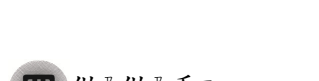

6. 57－5＝（ 52 ）

四 做做看。（每答 2 分，共 20 分）

1. 把算式連到正確的答案。

（1）53－30	（2）67－25	（3）8＋15

（1）→ㄅ；（2）→ㄆ；（3）→ㄅ；

ㄅ 23　　ㄆ 42

（4）→ㄆ；（5）→ㄆ；（6）→ㄅ

（4）83－41	（5）31＋11	（6）30－7

2. 將答案比較大的算式圈起來。

（1）78－6　78－5

（2）39－6　27－6

（3）29－17　29－18

（4）63－3　66－3

五 寫出算式做做看。(每題 3 分，共 12 分)

1. 小花有 45 張獎卡，老師再給她 22 張，小花共有幾張獎卡？

算式：45＋22＝67

共有(　67　)張獎卡

2. 小傑七月到圖書館借了 8 本書，八月借了 17 本書，兩個月共借了幾本書？

算式：8＋17＝25

共借了(　25　)本書

3. 弟弟有 68 顆彈珠，哥哥有 53 顆彈珠，弟弟比哥哥多幾顆彈珠？

算式：68－53＝15

多(　15　)顆彈珠

4. 又綸原有 84 元，花了 5 元後，還剩下多少元？

算式：84－5＝79

還剩下(　79　)元

六 看圖做做看，再用算式記下來。(每題 4 分，共 8 分)



1. 翔翔買了一輛 和一隻 ，要付多少元？

算式：25＋52＝77

要付(　77　)元

2. 買一隻 比買一顆 ，要多付幾元？

算式：35－14＝21

多付(　21　)元

七 先畫⑩和①，再用算式記下來。

(每題 3 分，共 12 分)(畫法僅供參考)

1. 東東有 27 顆糖果，老師又給他 4 顆，東東現在有多少顆糖果？

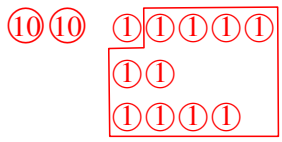

算式：27＋4＝31

有(　31　)顆糖果

2. 一盒馬卡龍有 56 顆，姐姐生日帶一盒馬卡龍請同學們吃，同學們共吃了 44 顆，還剩下幾顆馬卡龍？

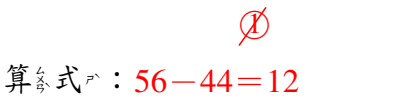

算式：56－44＝12

還剩下(　12　)顆馬卡龍

3. 媽媽買了 40 隻炸蝦，吃了 3 隻，剩下幾隻炸蝦？

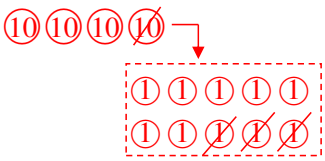

算式：40－3＝37

剩下(　37　)隻炸蝦

4. 小露有 21 朵玫瑰花，送給老師 6 朵，還有幾朵玫瑰花？

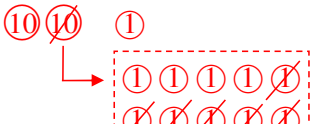

算式：21－6＝15

還有(　15　)朵玫瑰花

八 挑戰題。(每格 4 分，共 8 分)

▲88－53＝35

88－3＝(　85　)

88－43＝(　45　)