翰林校用 數學 第03回 答案

數學 1下 第3回

3、20以內的減法

一年____班____號

姓名：_____

得分

一 看圖做做看，再填答案：每題4分，共16分（畫法僅供參考）

1.

14－5＝9

2. 

15－7＝8

3. 

12－7＝5

4. 

13－8＝5

二 小朋友一起蒐集卡片。做一做，寫出算式和答案：每答3分，共30分

阿苑有13張

阿凌有9張

小儀有6張

小景有16張

1. 小景和阿凌的卡片誰比較多？多幾張？

算式：16－（9）＝（7）

（小景，阿凌）的卡片多，多（7）張

2. 阿苑和小儀的卡片誰比較多？多幾張？

算式：13－6＝7

（阿苑，小儀）的卡片多，多（7）張

3. 小景和小儀的卡片誰比較少？少幾張？

算式：16－6＝10

（小景，小儀）的卡片少，少（10）張

三 先想一想，再填填看：每格2分，共12分

1. 12－3＝9
   11－3＝（8）
   10－3＝（7）
   9－3＝（6）

2. 16－9＝7
   16－8＝（8）
   16－7＝（9）
   16－6＝（10）

四 寫出算式和答案：每題6分，共42分

1. 水果店有15盒蘋果，今天賣掉9盒，還有幾盒蘋果？

算式：15－9＝6

還有（6）盒蘋果

2. 哥哥和弟弟玩踢毽子，哥哥踢了13下，弟弟踢了5下，弟弟比哥哥少踢了幾下？

算式：13－5＝8

少踢了（8）下

3. 小美和小花下象棋，小美贏了12局，小花贏了5局，小美比小花多贏了幾局？

算式：12－5＝7

多贏了（7）局

4. 媽媽煮了16顆大湯圓，多多吃了7顆，還剩幾顆大湯圓？

算式：16－7＝9

還剩（9）顆大湯圓

5. 老師有11頂帽子，發給9個小朋友每人一頂，老師還剩下幾頂帽子？

算式：11－9＝2

還剩下（2）頂帽子

6. 有9張遊樂園門票，想發給17個小朋友每人一張，不夠幾張遊樂園門票？

算式：17－9＝8

不夠（8）張遊樂園門票

7. 籃子裡有15顆紅球和6顆白球，紅球和白球相差幾顆？

算式：15－6＝9

相差（9）顆

版權所有・翻印必究