翰林校用 數學 第04回 答案

數學 1下 第4回

4、100以內的數

一年____班____號

姓名：_____

得分

一 按照數的順序填填看：每格2分，共24分

1. 30 40 50 60 70 80
2. 56 58 60 62 64 66
3. 37 47 57 67 77 87
4. 45 50 55 60 65 70

二 先把10個、10個圈起來，再數數看有多少：每題4分，共8分（圈法僅供參考）

1.

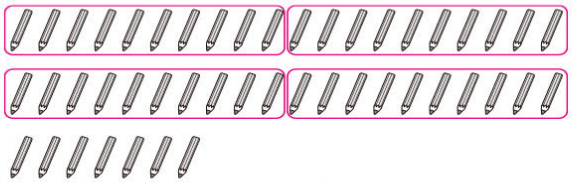

有（47）枝筆

2.

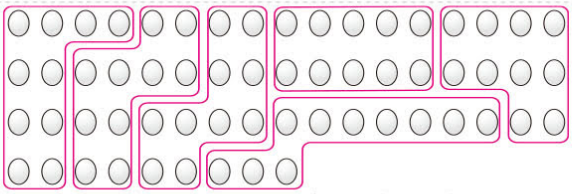

有（60）顆蛋

三 把比較大的數打✓，比較小的數畫◯：每題4分，共16分

1. 96 ✓ 69 ◯
2. 66 ◯ 72 ✓
3. 58 ◯ 61 ✓
4. 80 ◯ 85 ✓

四 在位值表上寫出積木表示的數：每題4分，共8分

1.

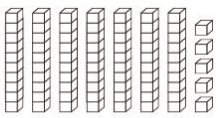

十位	個位
7	5

2.

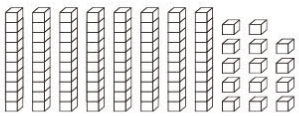

十位	個位
9	4

五 填填看：每格2分，共20分

1.



共有 36 朵花，再多1朵，共有 37 朵花。

2.

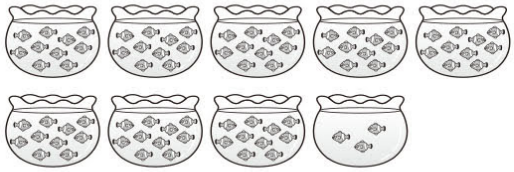

共有 83 條魚，再多10條，共有 93 條魚。

3.



全部有 54 顆蘋果，拿走1顆，還有 53 顆蘋果，再拿走1顆，還有 52 顆蘋果。

4.

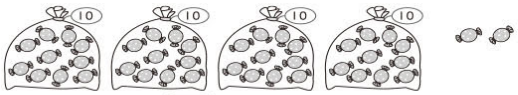

全部有 42 顆糖果，拿走10顆，還有 32 顆糖果，再拿走10顆，還有 22 顆糖果。

六 下面位值表中的數字表示什麼？每格3分，共12分

1.

十位	個位
8	9

有（8）個十和（9）個一。

2.

十位	個位
4	0

有（4）個十和（0）個一。

七 填填看，完成71～100的百數表：每格1分，共12分

71	72	73	74	75	76	77	78	79	80
81	82	83	84	85	86	87	88	89	90
91	92	93	94	95	96	97	98	99	100

版權所有・翻印必究