數學 1 下 第 4 回

4、100 以內的數

一年____班____號 姓名：_____ 得分

一 按照數的順序填填看：每格 2 分，共 24 分

1. 30 40 50 60 70 80
2. 56 58 60 62 64 66
3. 37 47 57 67 77 87
4. 45 50 55 60 65 70

二 先把 10 個、10 個圈起來，再數數看有多少：每題 4 分，共 8 分（圈法僅供參考）

1. 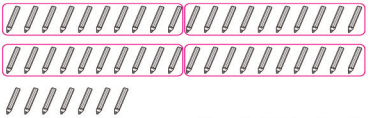

有（47）枝筆

2. 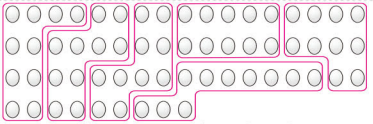

有（60）顆蛋

三 把比較大的數打✓，比較小的數畫○：每題 4 分，共 16 分

1. 96 69
2. 66 72
3. 58 61
4. 80 85

四 在位值表上寫出積木表示的數：每題 4 分，共 8 分

1. 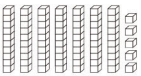

十位	個位
7	5

2. 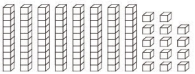

十位	個位
9	4

五 填填看：每格 2 分，共 20 分

1.

共有 36 朵花，再多 1 朵，共有 37 朵花。

2.

共有 83 條魚，再多 10 條，共有 93 條魚。

3. 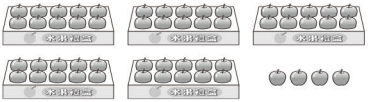

全部有 54 顆蘋果，拿走 1 顆，還有 53 顆蘋果，再拿走 1 顆，還有 52 顆蘋果。

4.

全部有 42 顆糖果，拿走 10 顆，還有 32 顆糖果，再拿走 10 顆，還有 22 顆糖果。

六 下面位值表中的數字表示什麼？ 每格 3 分，共 12 分

1.

十位	個位
8	9

有（8）個十和（9）個一。

2.

十位	個位
4	0

有（4）個十和（0）個一。

七 填填看，完成 71～100 的百數表：每格 1 分，共 12 分

71	72	73	74	75	76	77	78	79	80
81	82	83	84	85	86	87	88	89	90
91	92	93	94	95	96	97	98	99	100

版權所有・翻印必究