翰林校用 數學 第05回 答案

數學 1 下 第 5 回

5、形狀與形體

一年____班____號

姓名：_____

得分

一 沿虛線剪下來的圖形是哪一個？連連看：每題 3 分，共 12 分

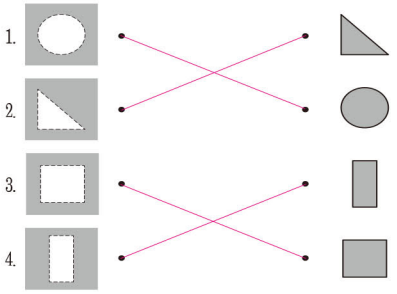

二 把和左邊形狀、大小都一樣的圖形圈起來：每題 4 分，共 8 分

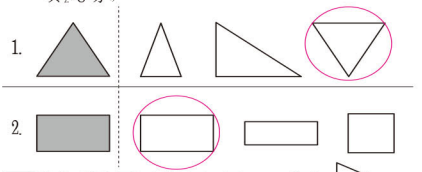

三 哪些圖形是用 2 個 拼出來的？圈圈看：每題 4 分，共 24 分

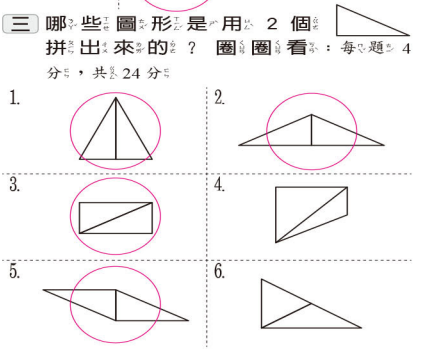

四 請找出被移動的那一塊三角形，在 ☐ 裡打✓：4 分

五 小司用五巧板拼的圖形，再放入哪一塊就可以拼成一條魚？圈圈看：4 分

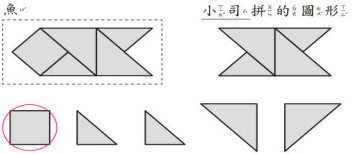

六 下面的圖形是用了幾個 拼出來的？填填看：每題 4 分，共 8 分



(3) 個　　(6) 個

七 數一數，下面的形體用了幾個 ？每題 4 分，共 16 分

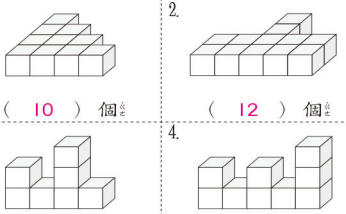

(10) 個　　(12) 個

(7) 個　　(9) 個

八 下面哪些形體是用了 8 個 排出來的？在（　）裡畫○：每題 4 分，共 24 分

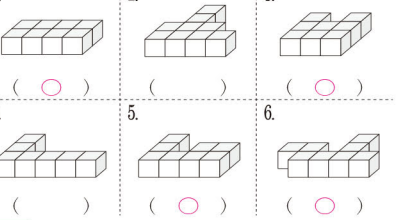

(○)　　(　　)　　(○)

(　　)　　(○)　　(○)

版權所有・翻印必究