# 翰林校用 數學 第05回 答案

數學 1下 第5回

## 5、形狀與形體

一年____班____號

姓名：_____

得分

**一** 沿虛線剪下來的圖形是哪一個？ 連連看：每題 3 分，共 12 分

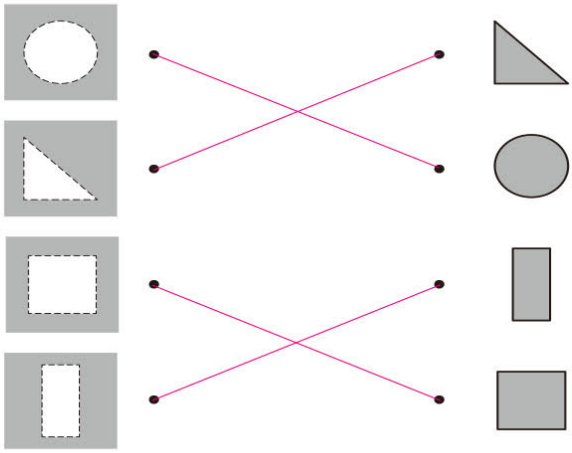


**二** 把和左邊形狀、大小都一樣的圖形圈起來：每題 4 分，共 8 分

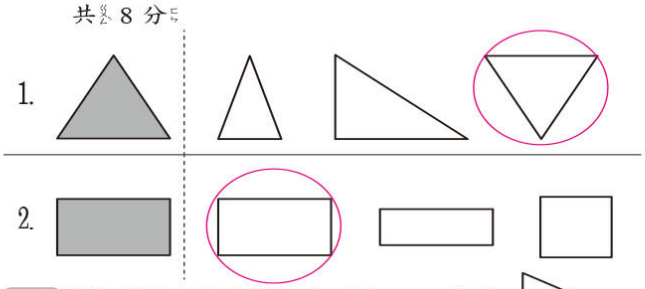


**三** 哪些圖形是用 2 個拼出來的？ 圈圈看：每題 4 分，共 24 分

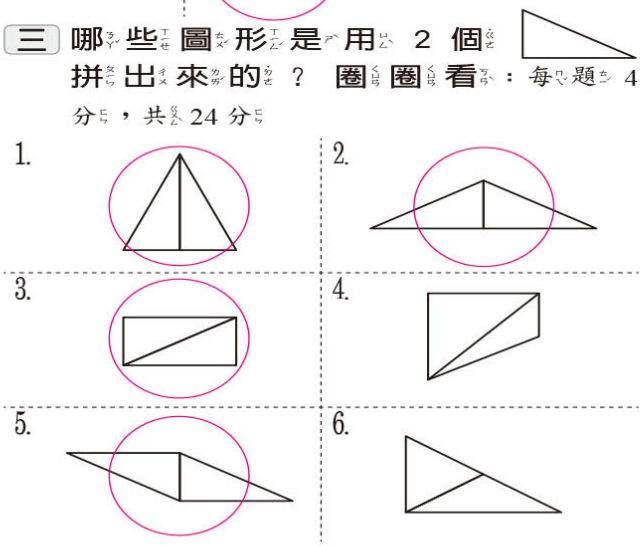


**四** 請找出被移動的那一塊三角形，在 □ 裡打✓：4 分

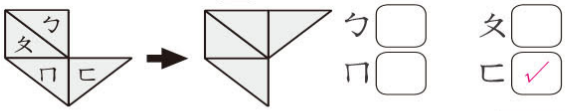


**五** 小司用五巧板拼的圖形，再放入哪一塊就可以拼成一條魚？ 圈圈看：4 分

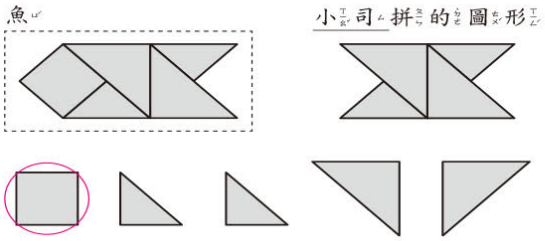


**六** 下面的圖形是用了幾個 △ 拼出來的？ 填填看：每題 4 分，共 8 分

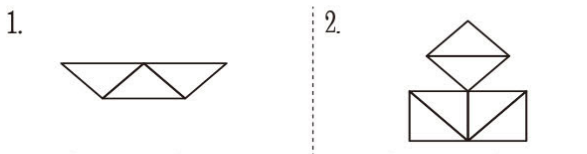


( 3 ) 個　　( 6 ) 個

**七** 數一數，下面的形體用了幾個 □？ 每題 4 分，共 16 分

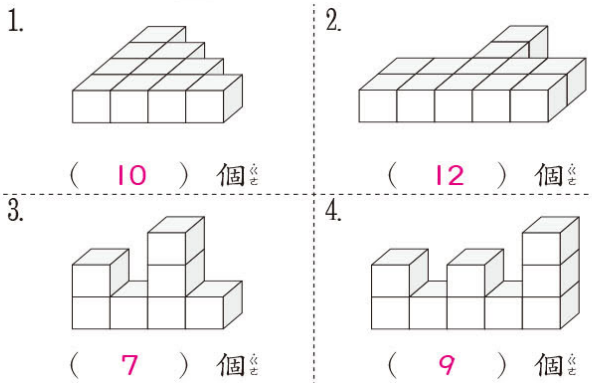


( 10 ) 個　　( 12 ) 個

( 7 ) 個　　( 9 ) 個

**八** 下面哪些形體是用了 8 個 □ 排出來的？ 在（　）裡畫○：每題 4 分，共 24 分

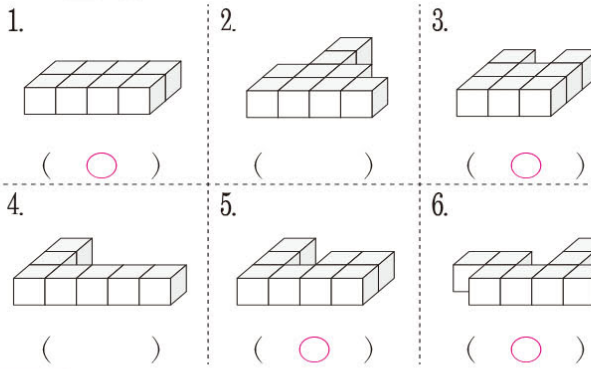


( ○ )　( 　 )　( ○ )

( 　 )　( ○ )　( ○ )

版權所有・翻印必究