翰林校用 數學 第09回 答案

數學 1下 第9回

8、兩位數的加減法(1)

一年____班____號 姓名：_____ 得分

一 看圖算算看：每題 2 分，共 6 分（第 2、3. 題畫法僅供參考）

1. 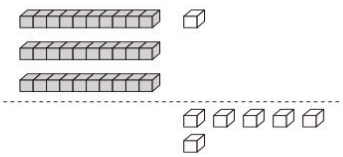

31＋6＝（ 37 ）

2.

47－12＝（ 35 ）

3.

58－26＝（ 32 ）

二 畫⑩和①算算看：每題 5 分，共 10 分（畫法僅供參考）

1. 86－33＝（ 53 ）

2. 70－20＝（ 50 ）

三 先圈一圈，再算算看：每題 4 分，共 12 分（圈法僅供參考）

1. 17＋6＝（ 23 ）

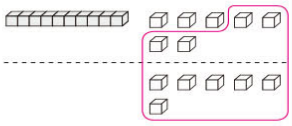

2. 29＋8＝（ 37 ）

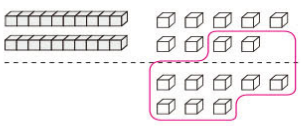

3. 33＋7＝（ 40 ）

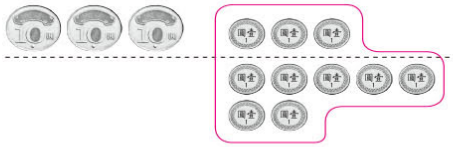

四 將答案比較大的算式圈起來：每題 4 分，共 12 分

1. 52＋8　　52＋7

2. 66－9　　67－9

3. 88－10　　88－20

五 把答案是 25 的畫○，答案是 38 的打✓，答案是 42 的畫△：每題 4 分，共 24 分

1. 16＋9（ ○ ）
2. 11＋27（ ✓ ）
3. 57－32（ ○ ）
4. 68－30（ ✓ ）
5. 55－13（ △ ）
6. 21＋21（ △ ）

六 寫出算式做做看：每題 6 分，共 36 分

1. 池塘裡有 27 隻青蛙，又跳來了 9 隻，現在池塘裡共有幾隻青蛙？

算式：27＋9＝36

共有（ 36 ）隻青蛙

2. 遊覽車上原有 34 個人，後來又上來 4 個人，遊覽車上現在共有幾個人？

算式：34＋4＝38

共有（ 38 ）個人

3. 小景有 49 張貼紙，送給小儀 25 張，還剩下幾張貼紙？

算式：49－25＝24

還剩下（ 24 ）張貼紙

4. 阿丹有 53 元，買了一個 42 元的漢堡後，他還有幾元？

算式：53－42＝11

還有（ 11 ）元

5. 一盒巧克力有 12 顆，阿凌買了 2 盒，共有幾顆巧克力？

算式：12＋12＝24

共有（ 24 ）顆巧克力

6. 草地上有 48 隻白羊，走了 31 隻後，還剩下幾隻白羊？

算式：48－31＝17

剩下（ 17 ）隻白羊

版權所有・翻印必究