翰林校用 數學 第10回 答案

數學 1下 第10回

8、兩位數的加減法(2)

一年____班____號 姓名：_____ 得分

一 看圖算算看：每題 4 分，共 16 分

1. 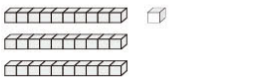

31＋4＝（ 35 ）

2. 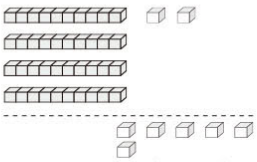

42＋6＝（ 48 ）

3. 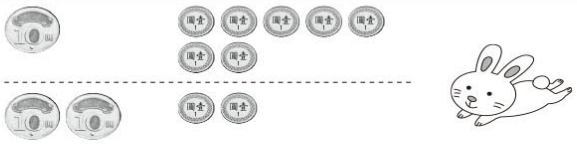

17＋22＝（ 39 ）

4. 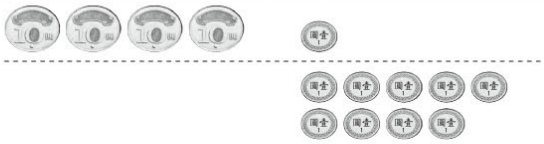

41＋9＝（ 50 ）

二 畫⑩和①算算看：每題 5 分，共 10 分（畫法僅供參考）

1. 55－23＝（ 32 ）

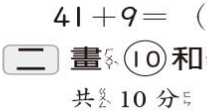

2. 43－6＝（ 37 ）

三 先畫⑩和①，再用算式記下來：每題 6 分，共 12 分（畫法僅供參考）

1. 桌上有 28 杯綠茶和 16 杯紅茶，綠茶比紅茶多幾杯？

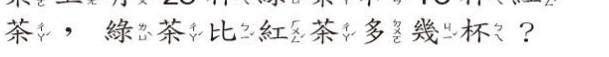

算式：28－16＝12

多（ 12 ）杯

2. 小美買了一份 30 元的雞蛋糕和一杯 15 元的冬瓜茶，共要付多少元？

算式：30＋15＝45

共要付（ 45 ）元

四 把算式連到正確的答案：每題 4 分，共 16 分

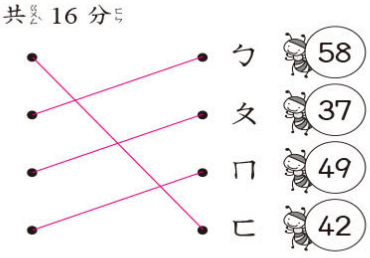

五 算算看：每題 4 分，共 16 分

1. 23＋8＝31　　2. 43＋15＝58

3. 67－23＝44　　4. 55－8＝47

六 寫出算式做做看：每題 6 分，共 30 分

1. 冰箱裡有 8 顆雞蛋和 12 顆鴨蛋，一共有幾顆蛋？

算式：8＋12＝20

一共有（ 20 ）顆蛋

2. 小星有 31 張小卡，小塵有 45 張小卡，小星比小塵少了幾張小卡？

算式：45－31＝14

少了（ 14 ）張小卡

3. 罐子裡原有 38 隻紙鶴，又放進去 6 隻紙鶴，罐子裡共有多少隻紙鶴？

算式：38＋6＝44

共有（ 44 ）隻紙鶴

4. 安安有 1 個 50 元硬幣，買了 1 張 8 元的郵票後，還剩下多少元？

算式：50－8＝42

還剩下（ 42 ）元

5. 嵐嵐買了 36 顆粽子，送給小宋 6 顆，嵐嵐還有幾顆粽子？

算式：36－6＝30

還有（ 30 ）顆粽子

版權所有・翻印必究