數學 1 下 第13回

第二次成績考查（第4～6單元）
（適用三次考查）

一年____班____號
姓名：_____

得分

一 數數看，有多少？ 每格1分，共7分

1.

有 40 顆草莓。

2.

5 個十和 6 個一，合起來是 56。 有 56 顆彈珠。

3.
有 32 朵花。

4.
有 60 顆棉花糖。

二 全部的積木和多少個一樣多？ 記在位值表上，再回答問題：每格1分，共10分。

1.

十位	個位
4	9

（4）個十和（9）個一，合起來是（49）。

2. 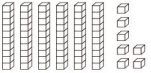

十位	個位
6	7

（6）個十和（7）個一，合起來是（67）。

三 按照數的順序填填看：每格1分，共7分

1. 30 — 40 — 50 — 60 — 70
2. 87 — 77 — 67 — 57 — 47
3. 92 — 93 — 94 — 95 — 96

四 填填看：每小題2分，共10分。

1. 2 個 可以換 1 張 。
2. 5 個 可以換 1 個 。
3. 3 個 可以換 15 個 。
4. 用了幾個 ▽？

(1) 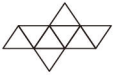
（8）個

(2)
（6）個

五 圈圈看：每小題2分，共18分。

1. 把形狀、大小和左邊圖形一樣的圈起來。

(1) 

(2) 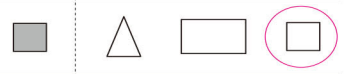

(3)

2. 哪些是用 7 個 排起來的？

(1)

(2) 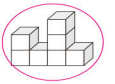

(3) 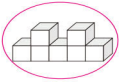

(4)

3. 宣宣和美美各買了一個38元的紅豆麵包，用不同的方法付錢。 圈圈看。（圈法僅供參考）

(1) 宣宣的付法

(2) 美美的付法

版權所有・翻印必究

〔背面還有試題〕