翰林校用 數學 第15回 答案

六 數一數，用了幾個 ？ 每題 2 分，共 12 分

1.

（ 6 ）個

2. 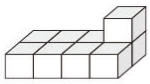

（ 9 ）個

3. 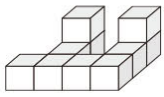

（ 10 ）個

4. 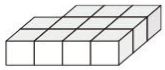

（ 11 ）個

5. 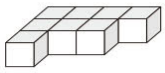

（ 8 ）個

6. 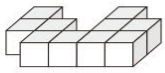

（ 10 ）個

七 先將數字記在位值表上，再圈圈看：每答 1 分，共 10 分

1. 卡卡採了 49 顆番茄，小新採了 63 顆番茄，誰採的番茄比較多？

卡卡

十位	個位
4	9

小新

十位	個位
6	3

（卡卡，小新）採的番茄比較多。

2. 邦邦買了 75 顆果凍，小貝買了 55 顆果凍，誰買的果凍比較少？

邦邦

十位	個位
7	5

小貝

十位	個位
5	5

（邦邦，小貝）買的果凍比較少。

八 用 10 表示 ，1 表示 。畫畫看，怎麼付錢才會剛好？ 每題 3 分，共 6 分

（畫法僅供參考）

1. 三明治

38元

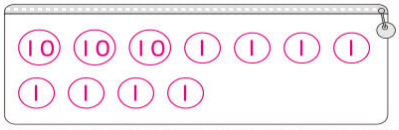

2. 米漢堡

49元

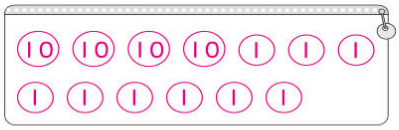

九 愛華、大仁和美瑩一起去買玩具，回答問題：每答 2 分，共 20 分

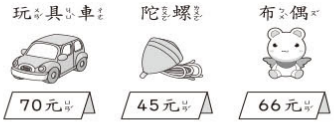

1. 數數看，有幾元？誰的錢最多？請在 □ 裡打✓。

愛華 □

（ 71 ）元

大仁 ☑

（ 100 ）元

美瑩 □

（ 64 ）元

2. 美瑩想買一隻布偶，她的錢不夠，還要補多少元才會剛好？用 1 畫出來。

3. 愛華想買一個陀螺，他帶的錢夠不夠買？圈圈看。

（夠，不夠）買

4. 大仁想買一輛玩具車，他可以怎麼付錢？

(1) 可以付（ 1 ）個 和（ 2 ）個 。

(2) 可以付（ 1 ）個 和（ 4 ）個 。

版權所有・翻印必究