翰林校用 數學 第15回 答案

六 數一數，用了幾個？ 每題2分，共12分

1.
（ 6 ）個

2. 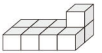
（ 9 ）個

3. 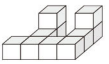
（ 10 ）個

4. 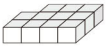
（ 11 ）個

5. 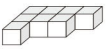
（ 8 ）個

6. 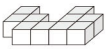
（ 10 ）個

七 先將數字記在位值表上，再圈圈看：每答1分，共10分

1. 卡卡採了49顆番茄，小新採了63顆番茄，誰採的番茄比較多？

卡卡

十位	個位
4	9

小新

十位	個位
6	3

（卡卡，小新）採的番茄比較多。

2. 邦邦買了75顆果凍，小貝買了55顆果凍，誰買的果凍比較少？

邦邦

十位	個位
7	5

小貝

十位	個位
5	5

（邦邦，小貝）買的果凍比較少。

八 用⑩表示 ，①表示 。畫畫看，怎麼付錢才會剛好？ 每題3分，共6分 （畫法僅供參考）

1. 三明治

38元

2. 米漢堡

49元

九 愛華、大仁和美瑩一起去買玩具，回答問題：每答2分，共20分

1. 數數看，有幾元？誰的錢最多？請在□裡打✓。

愛華

（ 71 ）元

大仁

（ 100 ）元

美瑩



（ 64 ）元

2. 美瑩想買一隻布偶，她的錢不夠，還要補多少元才會剛好？ 用①畫出來。

3. 愛華想買一個陀螺，他帶的錢夠不夠買？圈圈看。

（夠，不夠）買

4. 大仁想買一輛玩具車，他可以怎麼付錢？

(1) 可以付（ 1 ）個 和（ 2 ）個 。

(2) 可以付（ 1 ）個 和（ 4 ）個 。

版權所有・翻印必究