翰林校用 數學 第19回 答案

七 先想一想，再填填看：每格1分，共14分

1. 8＋9＝17
   8＋8＝（ 16 ）
   8＋7＝（ 15 ）
   8＋6＝（ 14 ）

2. 4＋9＝13
   5＋9＝（ 14 ）
   6＋9＝（ 15 ）
   7＋9＝（ 16 ）

3. 15－6＝9
   14－6＝（ 8 ）
   13－6＝（ 7 ）
   12－6＝（ 6 ）

4. 15－5＝10
   15－6＝（ 9 ）
   15－7＝（ 8 ）
   15－8＝（ 7 ）

5. 7＋6＝13
   6＋7＝（ 13 ）

6. 5＋6＝11
   6＋5＝（ 11 ）

八 做做看：每小題1分，共10分

1. 把答案一樣的算式連起來。

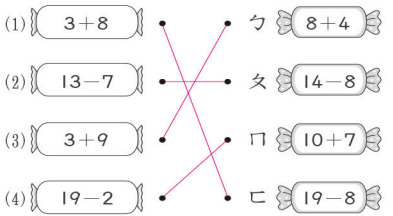

2. 把答案是 14 的算式圈起來。

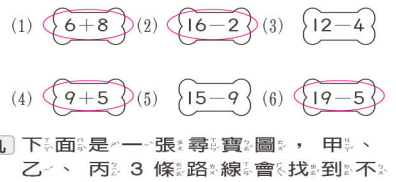

九 下面是一張尋寶圖，甲、乙、丙的寶藏，回答問題：每格1分，共4分

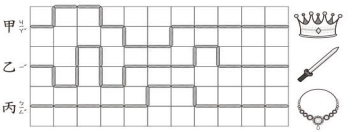

1. 數一數，找到寶藏的路線和幾個一樣長？
   (1) 甲和（ 15 ）個一樣長。
   (2) 乙和（ 19 ）個一樣長。
   (3) 丙和（ 13 ）個一樣長。
2. 路線最短的是（ 丙 ）路線。

十 把做法用算式記下來：每題4分，共28分

1. 小參買了7枝紅筆和5枝藍筆，共買幾枝筆？

   算式：7＋5＝12

   共買（ 12 ）枝筆

2. 有9個人在玩遊戲，又來了6個人一起玩，合起來有幾個人在玩遊戲？

   算式：9＋6＝15

   有（ 15 ）個人

3. 罐子裡有6塊巧克力，又放進去10塊巧克力，罐子裡共有幾塊巧克力？

   算式：6＋10＝16

   共有（ 16 ）塊巧克力

4. 池塘裡面有18條鯉魚和9條金魚，金魚比鯉魚少幾條？

   算式：18－9＝9

   金魚比鯉魚少（ 9 ）條

5. 老師有7份材料包，發給16個小朋友每人一份，不夠幾份材料包？

   算式：16－7＝9

   不夠（ 9 ）份材料包

6. 一盒餅乾有13片，小山買一盒，吃了8片，這盒餅乾還剩下幾片？

   算式：13－8＝5

   還剩下（ 5 ）片

7. 店裡有14件外套，賣掉6件，還有幾件外套？

   算式：14－6＝8

   還有（ 8 ）件外套

版權所有・翻印必究