翰林校用 數學 第21回 答案

六 看圖回答問題：第1～3題每題5分，第4～6題每答2分，共37分



1. 琳琳買了一枝 和一個 ，要付多少元？

算式： 25＋40＝65

要付（ 65 ）元

2. 買一個 比買一枝 ，要多付多少元？

算式： 38－8＝30

多付（ 30 ）元

3. 小東買了2個 ，要付多少元？

算式： 40＋40＝80

要付（ 80 ）元

4. 群群想買一個 ，怎麼付錢才會剛好？圈圈看。

（圈法僅供參考）

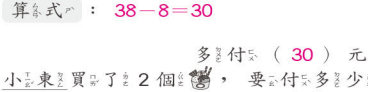

5. 小月和阿真都想買一個 ，他們的錢夠不夠買？

小月的錢：



有（ 39 ）元（夠，不夠）買

阿真的錢：

有（ 45 ）元（夠，不夠）買

▲ 誰的錢比較多？圈圈看。（小月，阿真）

6. 冰店老闆請客人選出最喜歡的冰品，結果記錄在下表。寫出票數後圈圈看。

冰品				
票選紀錄	正正正丅	正正正丅	正一	正正丅
票數	19 票	17 票	6 票	13 票

▲ 哪一種冰品最受歡迎？（ ，， ，， ）

七 先完成月曆，再回答問題：每答1分，共12分

☆☆ 3月 ☆☆

日	一	二	三	四	五	六
			1	2	3	4
5	6	7	8 婦女節	9 小妍生日	10	11
12	13	14	15	16	17	18
19	20	21	22	23	24	25
26	27	28	29	30	31	

1. 這是（ 3 ）月的月曆。
2. 這個月有（ 5 ）個星期三。
3. 這個月的最後一天是（ 3 ）月（ 31 ）日星期（ 五 ）。
4. 今天是3月3日，接下來小妍生日和婦女節，哪一天先到？圈圈看。

（小妍生日，婦女節）

八 寫出算式和答案：每題5分，共10分

1. 小樂買了14瓶巧克力牛奶和23瓶芒果牛奶，小樂共買了幾瓶牛奶？

算式： 14＋23＝37

共買了（ 37 ）瓶牛奶

2. 書櫃裡有46本書，被小朋友借走了15本，書櫃裡還有幾本書？

算式： 46－15＝31

還有（ 31 ）本書

版權所有・翻印必究