南一門市數學 第01回

1下 數學 第 1 回

1. 數到 100 (1)

_____年_____班_____號

姓名_____

一 先 10 個、10 個圈起來，再填填看。畫圖 5 分，每格 3 分，共 20 分



有（　　）個十和（　　）個一，合起來是（　　）。

十位	個位

二 填入適當的數。每格 2 分，共 12 分

(1) 75 ▭ 85 90 ▭ ▭

(2) ▭ ▭ 70 60 ▭ 40

三 有一群小朋友在排隊健康檢查，看圖回答問題。

每答 2 分，共 10 分



(1) 小英排在第（　　）個，小美排在第（　　）個。

(2) 小英和小美，誰先檢查？

（小英　，　小美）（圈圈看）

(3) 前面已經有（　　）個人上車檢查。

(4) 前 50 個檢查的小朋友會拿到一個小禮物，則有（　　）個小朋友拿不到小禮物。

四 填填看。每格 2 分，共 24 分

(1) 9 個十和 7 個一合起來是（　　）。

(2) 85 的十位數字是（　　），表示有（　　）個十，是（　　）；個位數字是（　　），表示有（　　）個一，是（　　）。

(3) 鍋子裡有 67 顆水餃，吃掉 10 顆，還剩下（　　）顆水餃。

(4) 74 可以分成（　　）個十和 4 個一。

(5) 把湯圓每 10 顆、10 顆裝在一個碗裡：

① 裝了 7 碗，再多 3 顆，共有（　　）顆湯圓。

② 92 顆湯圓最多可以裝成（　　）碗，還多（　　）顆。

五 比較大的數在（　）裡打 ∨，比較小的畫 ◯。每格 1 分，共 4 分

(1)

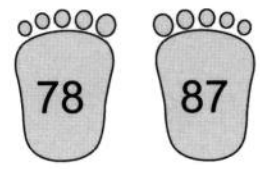

（　　）（　　）

(2)



（　　）（　　）

六 按照指示把數填入（　）裡。每格 3 分，共 30 分

47	55	63	74	35
51	18	65	59	86

(1) 個位數字是 5 的有哪些？

（　　）、（　　）和（　　）

(2) 十位數字是 5 的有哪些？

（　　）、（　　）和（　　）

(3) 比 40 小的數字有哪些？

（　　）和（　　）

(4) 比 70 大的數字有哪些？

（　　）和（　　）