南一門市 數學 第02回

1. 數到 100 (2)

_____年_____班_____號

姓名_____

一 數一數，有多少？連一連。

每答 2 分，共 8 分

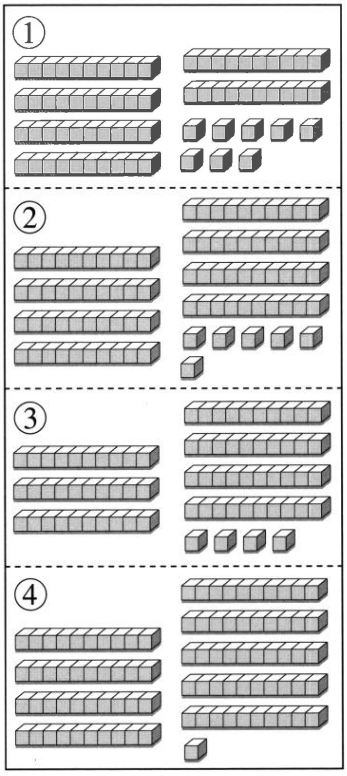

- ㄅ. 86
- ㄆ. 74
- ㄇ. 91
- ㄈ. 68

二 填入適當的數。每格 2 分，共 12 分

(1) [ ] 45 50 55 [ ] [ ]

(2) 73 [ ] [ ] 43 33 [ ]

三 填填看。每格 3 分，共 24 分

(1) 1 條吐司有 10 片，5 條又 8 片吐司共（　　）片。

(2) 1 包糖果有 10 顆，媽媽買了 7 包，共有（　　）顆糖果，弟弟吃掉 1 顆，剩（　　）顆糖果，哥哥又吃了 1 包，還剩（　　）顆糖果。

(3) 70 的十位數字是（　　），個位數字是（　　）。

(4) 8 個十和 1 個一合起來是（　　）。

(5) 10 個十合起來是（　　）。

四 完成下列百數表，再回答問題。每格 2 分，共 50 分

1	2	3	4	5	6	7	8	9	10
11	12		14	15	16		18	19	20
21	22	23			26	27			30
31		33	34		36	37		39	40
41	42		44	45		47	48		50
51		53	54	55	56	57			60
61		63	64	65	66	67	68	69	70
71	72	73	74	75	76	77	78		80
81		83	84	85	86	87	88	89	90
91	92	93	94			97	98	99	

(1) 從 5 往下讀，個位數字都是（　　）。

(2) 從 8 往下讀，個位數字都是（　　）。

(3) 從 31 往右讀，除了 40 外，十位數字都是（　　）。

(4) 從 71 往右讀，除了 80 外，十位數字都是（　　）。

五 比一比，在定位板上寫一個數。每題 1 分，共 2 分

(1) 寫出一個比 87 大的數？

十位	個位
	7

(2) 寫出一個比 21 小的數？

十位	個位
	1

六 比較大的數在（　）裡打 ∨，比較小的畫 ◯。每格 1 分，共 4 分

(1)

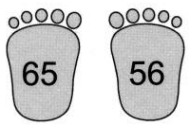

（　　）（　　）

(2)

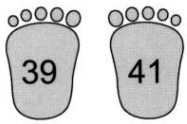

（　　）（　　）