南一門市 數學 第03回

# 2. 18 以內的加法 (1)

_____年_____班_____號

姓名_____

## 一 先圈 10 個，再算算看。

每題 6 分，共 24 分

(1)

8＋5＝（　　）

(2)

4＋7＝（　　）

(3)

9＋7＝（　　）

(4)



7＋7＝（　　）

## 二 先圈 10 個，再填填看。

每答 5 分，共 40 分

(1) 8＋7＝（　　）

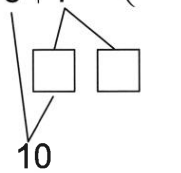


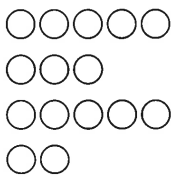

(2) 5＋ 6＝（　　）

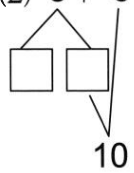


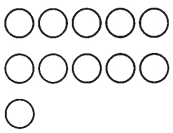

## 三 畫○做做看。

每題 6 分，共 12 分

(1) 櫻花樹下有 7 個人，跑來 3 個，又跑來 6 個，櫻花樹下共有幾個人？

畫○：

有（　　）個

(2) 小櫻有 4 張貼紙，哥哥給她 2 張，姐姐又給她 8 張，現在小櫻有幾張貼紙？

畫○：

有（　　）張

## 四 把做法用算式記下來。

每題 8 分，共 24 分

(1) 爸爸用手機幫小宇拍了 6 張照片，又幫媽媽拍了 9 張照片，爸爸共拍了幾張照片？

算式：

拍了（　　）張

(2) 小智左手有 5 片花瓣，右手有 7 片花瓣，小智雙手共有幾片花瓣？

算式：

有（　　）片

(3) 投籃比賽時，小波和小鼬都投進 8 球，兩人共投進幾球？

算式：

投進（　　）球