南一門市 數學 第05回

1下 數學 第5回

3. 長度 (1)

_____年_____班_____號

姓名_____

一 用一樣長的紙帶比比看，哪一個比較長？比較長的在□中打∨，比較短的打×。每題 3 分，共 6 分

(1)

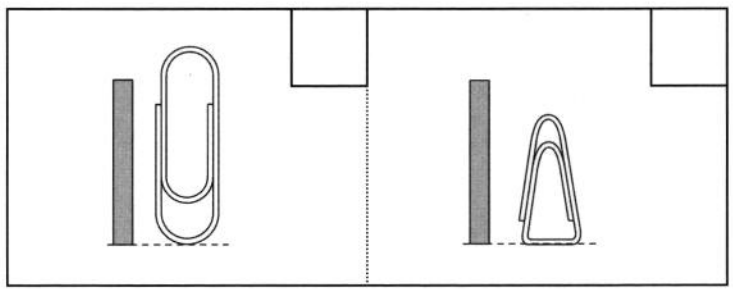

(2)

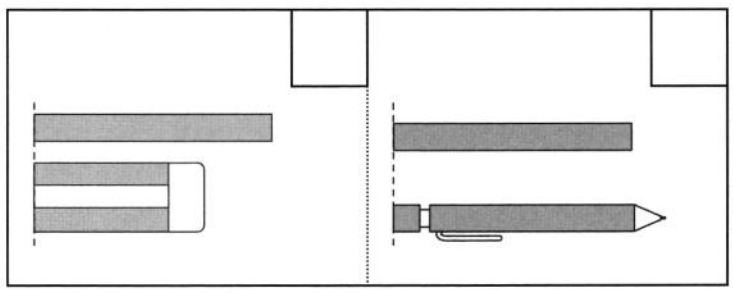

二 看圖填填看。每小題 4 分，共 32 分

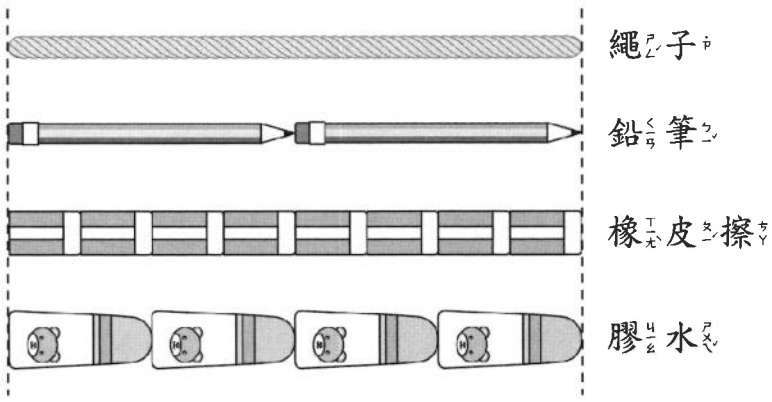

(1) (　　) 枝鉛筆和 1 條繩子一樣長。

(2) (　　) 塊橡皮擦和 1 枝鉛筆一樣長。

(3) 1 條繩子和 (　　) 塊橡皮擦一樣長。

(4) 1 枝鉛筆和 (　　) 瓶膠水一樣長。

(5) 由長到短寫上 1、2、3、4：

① 一條繩子　(　　)

② 一枝鉛筆　(　　)

③ 一塊橡皮擦　(　　)

④ 一瓶膠水　(　　)

三 數一數，和幾個□一樣長？看圖回答問題。每題 4 分，共 12 分

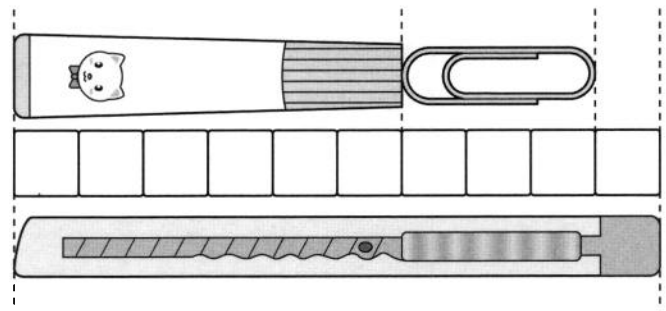

(1) 膠水和 (　　) 個□一樣長。

(2) 1 把美工刀和 (　　) 個□一樣長。

(3) (　　) 個□和 1 個迴紋針合起來，和美工刀一樣長。

四 小智張開雙手量各車種的長，由長到短在□中填入 1、2、3、4，並看圖回答問題。每格 5 分，共 50 分

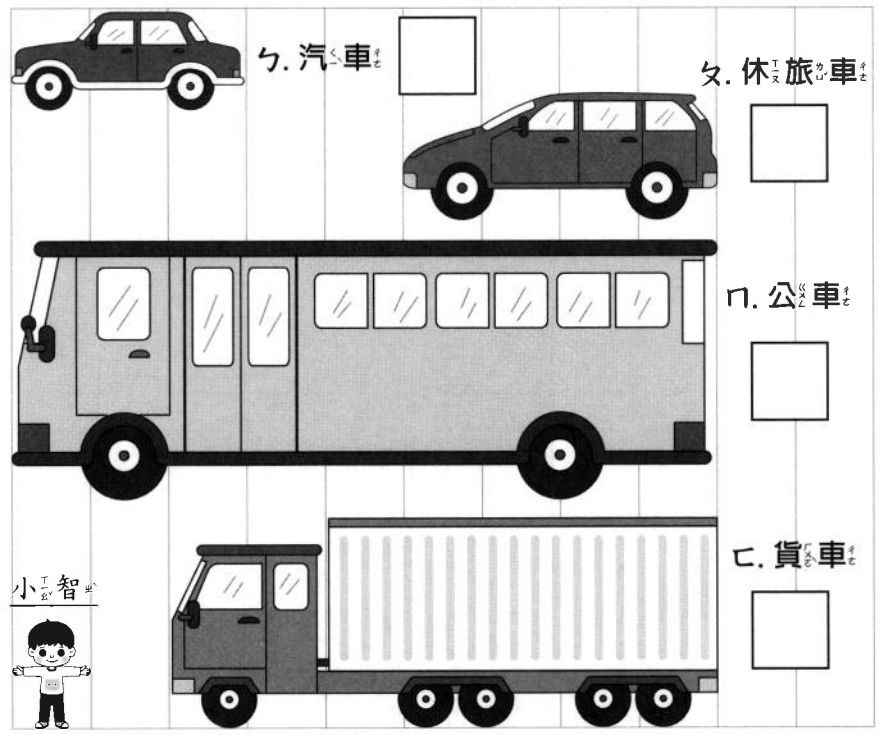

(1) 公車和休旅車合起來的長，小智需要量 (　　) 次。

(2) (　　) 和 (　　) 合起來，和貨車一樣長。(填代號)

(3) 公車比汽車多量 (　　) 次。

(4) (　　) 和 (　　) 合起來，剛好要量 10 次。(填代號)