南一門市 數學 第06回

3. 長度 (2)

年　班　號

姓名

一 用一樣長的紙帶比比看，比較粗的在（　）裡打∨，比較細的打×。每格 5 分，共 10 分

（　　）　　（　　）

二 看圖回答問題。每答 6 分，共 12 分

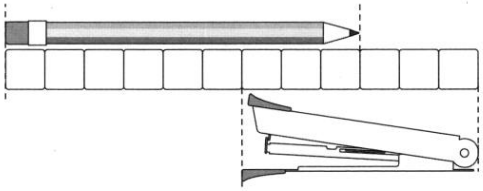

和　接在一起，和（　　）個□一樣長。

算式：＿＿＿＿＿＿＿＿＿＿

三 有 3 個小矮人在尋寶，看圖回答問題。每題 6 分，共 18 分

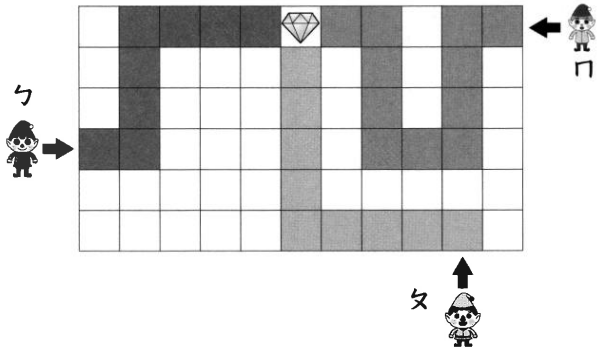

（只能走有塗色的格子。）

(1) ㄇ 要走（　　）格才能找到寶物。

(2) ㄇ 比 ㄅ 多走（　　）格才能找到寶物。

(3) 哪一個小矮人離寶物最近？

（　　）（填代號）

四 比比看，由長到短，在□中填入 1、2、3、4。每格 6 分，共 24 分

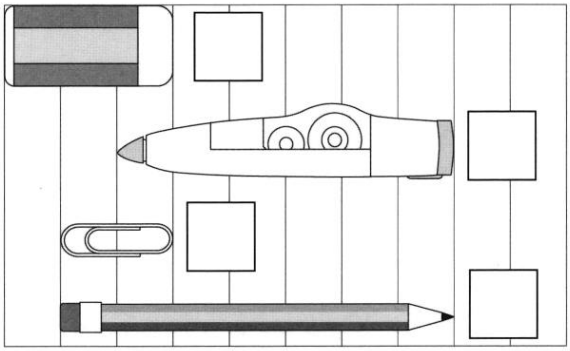

五 下面物品各有多長？並回答問題。每題 6 分，共 18 分

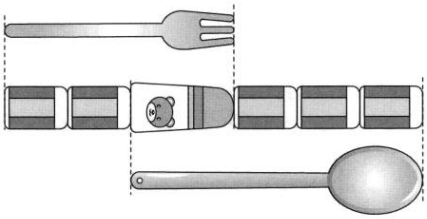

(1) 1 瓶 和（　　）塊 合起來，和 一樣長。

(2) 1 瓶 和（　　）塊 合起來，和 一樣長。

(3) 把比較長的圈起來。

（　　，　　）

六 看圖做做看。每題 6 分，共 18 分

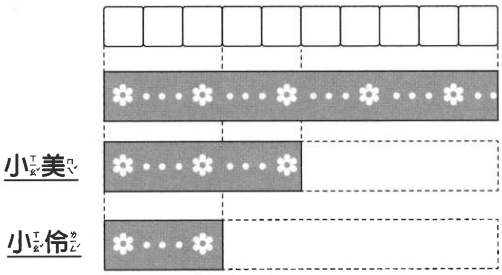

（虛線部分代表被剪掉的緞帶）

(1) （　　）剪掉的緞帶比較長。

(2) （　　）剩下的緞帶比較長。

(3) 小伶比小美多剪掉（　　）個□長的緞帶。