南一門市 數學 第07回

4. 18以內的減法 (1)

_____年_____班_____號

姓名_____

一 選出正確的圖示，在□中打∨，並寫出算式及答案。

每答5分，共30分

(1) 花園裡有7隻蝴蝶，蜜蜂比蝴蝶多5隻，蜜蜂有幾隻？

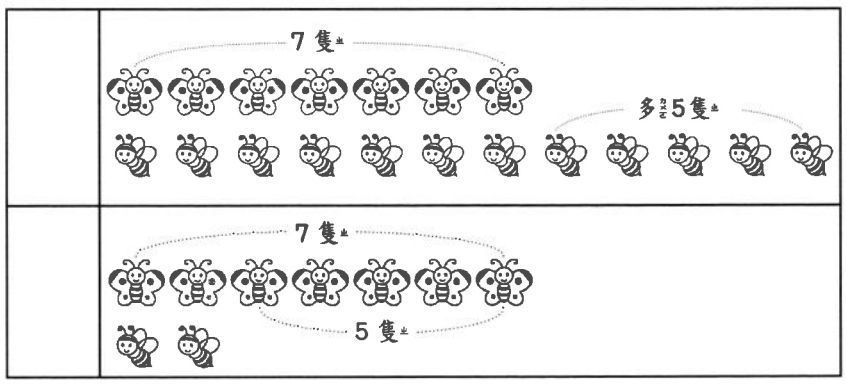

算式：

(　　) 隻

(2) 尼飛買了12個蛋糕，彼多比尼飛少買4個，彼多買了幾個蛋糕？

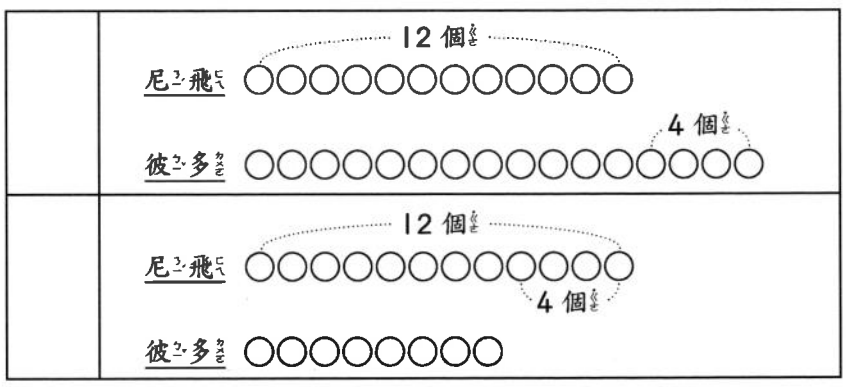

算式：

(　　) 個

二 畫○算算看。每題5分，共20分

(1) 13－5＝(　　)

(2) 10－7＝(　　)

(3) 12－7＝(　　)

(4) 15－8＝(　　)

三 圈出正確的算式，再寫出答案。每答5分，共30分

(1) 7隻公牛和6隻母牛合起來，共有幾隻牛？

7－6＝1　　7＋6＝13

有(　　) 隻

(2) 爸爸買了11枝冰棒，有3枝是巧克力口味，其他是香草口味，香草口味有幾枝？

11－3＝8　　11＋3＝14

有(　　) 枝

(3) 農場裡有8隻白兔，黑兔比白兔少3隻，黑兔有幾隻？

8－3＝5　　8＋3＝11

有(　　) 隻

四 把做法用算式記下來。共20分

(1) 小繼買了8個水梨和17個蘋果，水梨比蘋果少幾個？(6分)

算式：

少(　　) 個

(2) 小國買了15個吊飾要送同學，有9個是乳牛造型，其他的是草泥馬造型，草泥馬造型的吊飾有幾個？(7分)

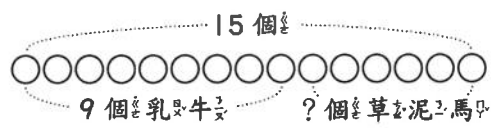

算式：

有(　　) 個

(3) 小緣今年14歲，小壹比小緣小5歲，小壹今年幾歲？(7分)

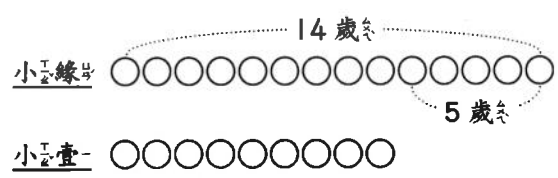

算式：

(　　) 歲