南一門市數學 第08回

1下 數學 第8回

4. 18 以內的減法 (2)

_____年_____班_____號

姓名_____

一 把答案相同的算式連起來。每答 3 分，共 12 分

(1) 13－8 •　　• ㄅ. 18－9

(2) 12－6 •　　• ㄆ. 11－3

(3) 17－8 •　　• ㄇ. 14－8

(4) 15－7 •　　• ㄈ. 12－7

二 圈出正確的算式，再寫出答案。每答 3 分，共 12 分

(1) 9 個紅球和 5 個綠球合起來有幾個球？

9＋5＝14　　9－5＝4

(　　) 個

(2) 水缸裡有 13 條孔雀魚，孔雀魚比神仙魚多 5 條，神仙魚有幾條？

13＋5＝18　　13－5＝8

(　　) 條

三 看圖填填看。每答 4 分，共 32 分

(1) 小狗比小貓多幾隻？



(　　) □ (　　) ＝ (　　) 隻

(2) 小丑還剩下幾個氣球？

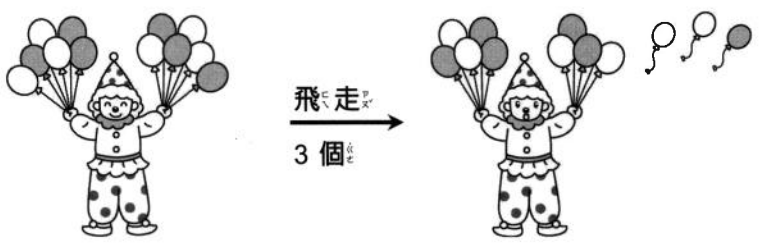

(　　) □ (　　) ＝ (　　) 個

四 算算看。每題 5 分，共 20 分

(1) 17－9＝ (　　)　　(2) 12－4＝ (　　)

(3) 13－6＝ (　　)　　(4) 11－5＝ (　　)

五 把做法用算式記下來。每題 6 分，共 24 分

(1) 投籃比賽，澤北投進了 13 球，榮治投進了 5 球，澤北比榮治多投進了幾球？

算式：

多 (　　) 球

(2) 一個箱子可以裝 17 個橘子，藤真已經裝了 8 個，再裝幾個橘子就可以裝滿一箱？

算式：

再裝 (　　) 個

(3) 宮城吃了 8 個湯包，良田比宮城多吃了 5 個，良田吃了幾個湯包？

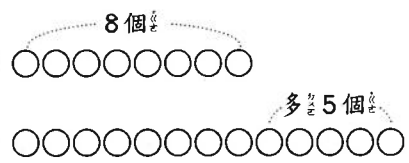

算式：

吃了 (　　) 個

(4) 阿牧身上有 14 元，紳一比阿牧少 6 元，紳一身上有幾元？

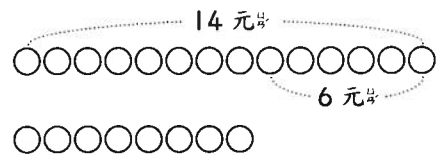

算式：

有 (　　) 元