南一門市 數學 第11回

1下 數學 第11回

第一次成績考查 (1)

適用於兩次段考　範圍：第 1 單元～第 5 單元

_____年_____班_____號

姓名_____

一 看圖填填看。每題 4 分，共 20 分

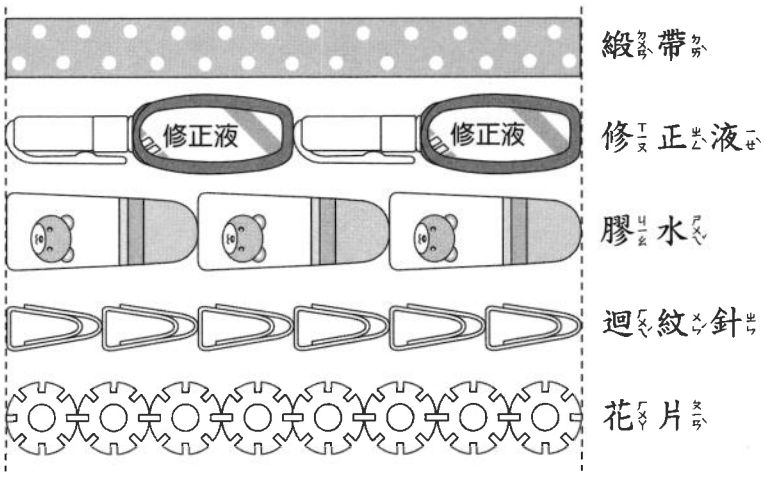

(1) (　　) 瓶膠水和 1 條緞帶一樣長。

(2) 1 瓶修正液和 (　　) 個迴紋針一樣長。

(3) (　　) 個花片和 1 瓶修正液一樣長。

(4) 1 條緞帶和 (　　) 瓶修正液一樣長。

(5) 2 條緞帶接在一起和 (　　) 個迴紋針一樣長。

二 下面圖形各是用幾片 ◣ 排成的？填一填。每題 4 分，共 8 分

(1)

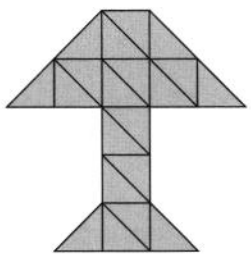

(　　) 片

(2)

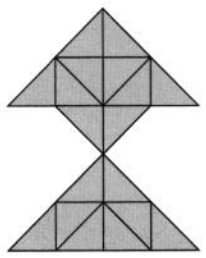

(　　) 片

三 哪些形體是用 8 個 ◻ 堆成的？在 □ 中打 ∨，不是的打 ×。每題 4 分，共 16 分

(1)  □

(2) 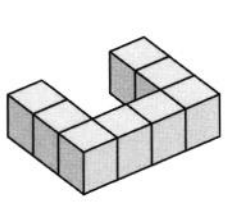 □

(3) 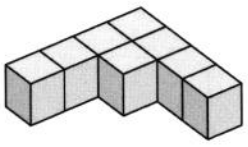 □

(4) 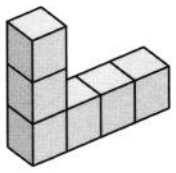 □

四 算算看。每題 4 分，共 24 分

(1) 13－9＝(　　)　(2) 7＋6＝(　　)

(3) 8＋8＝(　　)　(4) 16－7＝(　　)

(5) 6＋5＝(　　)　(6) 11－8＝(　　)

五 填入適當的數。每格 3 分，共 15 分

(1) 43 [ ] 63 [ ] 83 93

(2) 35 [ ] 45 50 [ ] [ ]

六 把做法用算式記下來。共 17 分

(1) 餐廳裡原有 17 個客人，一段時間後，還剩下 9 個在用餐，用完餐離開的客人有幾個？(5 分)

算式：

有 (　　) 個

(2) 吉連有 14 張怪獸卡，比悟空還多 7 張，悟空有幾張怪獸卡？(6 分)

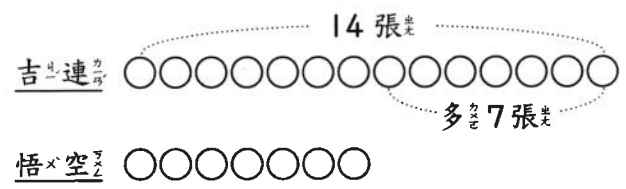

算式：

有 (　　) 張

(3) 體育器材室裡有 6 個籃球，足球比籃球多 5 個，體育器材室裡有幾個足球？(6 分)

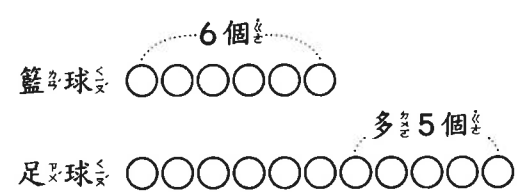

算式：

有 (　　) 個