南一門市 數學 第12回

1下 數學 第12回

第一次成績考查 (2)

適用於兩次段考　範圍：第 1 單元～第 5 單元

_____年_____班_____號

姓名_____

一 連連看。每答 4 分，共 28 分

(1) 各形體塗色的面，印出來是哪一個圖形？連連看。

①

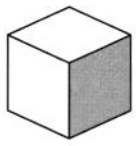

②

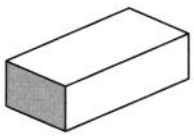

③

④

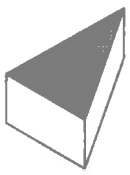

ㄅ.

ㄆ.

ㄇ.

(2) 將骰子點數一樣的連起來。

①	②	③
		

ㄅ.	ㄆ.	ㄇ.
		

二 下面心算卡中，把答案是 8 的圈起來。每答 4 分，共 12 分

11－3	16－9	15－7
13－5	12－6	11－4

三 填填看。每格 5 分，共 20 分

(1) 寫出兩個十位數字是 6，且比 65 大的數。(　　)、(　　)

(2) 寫出兩個個位數字是 3，且比 65 小的數。(　　)、(　　)

四 看圖回答問題。每答 4 分，共 28 分



(1) 由短到長，在 (　　) 裡填入 1、2、3、4。



(　　)　(　　)　(　　)　(　　)

(2) 和 合起來和 (　　) 個□一樣長。

(3) 哪兩個的身長合起來和 一樣長？圈圈看。

(,  ,)

五 把做法用算式記下來。

每題 6 分，共 12 分

(1) 普烏買了 13 個布丁，吃掉一些後還剩下 4 個，普烏吃掉了幾個布丁？

算式：

吃掉 (　　) 個

(2) 阿森買 8 罐茶葉，比重寬少買 4 罐，重寬買幾罐茶葉？

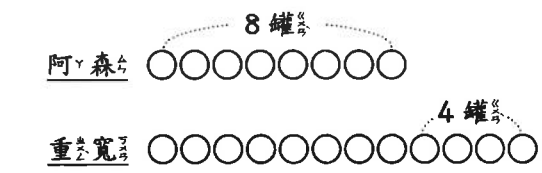

算式：

買 (　　) 罐