南一門市 數學 第13回

1下 數學 第13回

第一次成績考查 (3)

適用於兩次段考　範圍：第1單元～第5單元

＿＿年＿＿班＿＿號

姓名＿＿＿＿＿＿＿＿

一 先10個、10個圈起來，再填一填。畫圖5分，每格4分，共25分

圈了（　　）組10個，又多（　　）個，共有（　　）個。再多10個，共有（　　）個，又再多10個，共有（　　）個。

二 看圖回答問題。每答4分，共16分

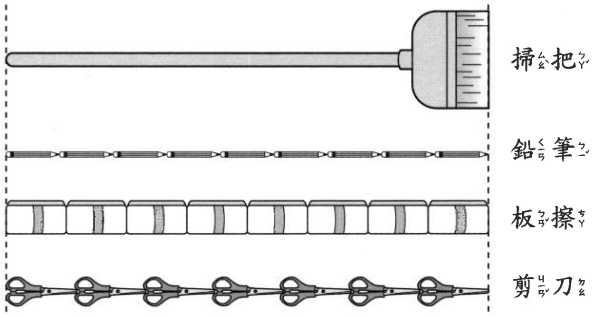

(1) 1枝掃把和（　　）枝鉛筆一樣長。

(2) 1枝掃把和（　　）個板擦一樣長。

(3) （剪刀，板擦）比較長。

(4) 2枝掃把接在一起和（　　）把剪刀一樣長。

三 比較大的在（　）裡打∨，比較小的畫○。每格3分，共18分

(1)



（　　）（　　）

(2)



（　　）（　　）

(3)

8＋3　　6＋6

（　　）（　　）

四 下面形體各是用幾個 堆成的？填一填。每題5分，共20分

(1)



（　　）個

(2)

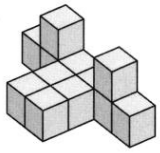

（　　）個

(3)



（　　）個

(4)



（　　）個

五 把做法用算式記下來。每題7分，共21分

(1) 櫻木排隊交作業，他排在第4個，後面還有7個，共有幾個人在排隊交作業？

算式：

有（　　）個

(2) 緋村在星期六做了6朵胸花，星期日比星期六多做了5朵，他在星期日做了幾朵胸花？

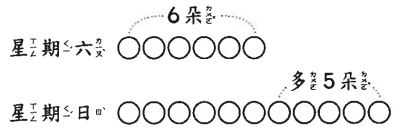

算式：

做了（　　）朵

(3) 炎柱買了14個包子，其中8個是肉包，其他是菜包，菜包有幾個？

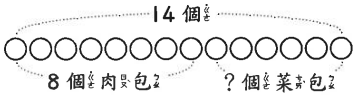

算式：

有（　　）個