1下 數學 第13回

第一次成績考查 (3)

適用於兩次段考　範圍：第 1 單元～第 5 單元

_____年_____班_____號

姓名_____

一 先 10 個、10 個圈起來，再填一填。畫圖 5 分，每格 4 分，共 25 分

圈了（　　）組 10 個，又多（　　）個，共有（　　）個。再多 10 個，共有（　　）個，又再多 10 個，共有（　　）個。

二 看圖回答問題。每答 4 分，共 16 分

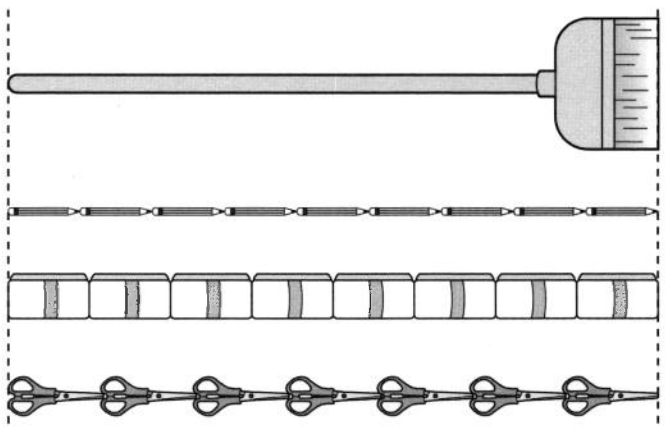

(1) 1 枝掃把和（　　）枝鉛筆一樣長。

(2) 1 枝掃把和（　　）個板擦一樣長。

(3) （ 剪刀 ， 板擦 ）比較長。

(4) 2 枝掃把接在一起和（　　）把剪刀一樣長。

三 比較大的在（　）裡打 ∨，比較小的畫 ○。每格 3 分，共 18 分

(1)

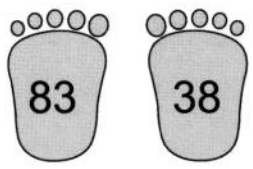

（　　）（　　）

(2)

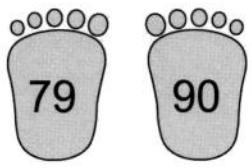

（　　）（　　）

(3)

8＋3　　6＋6

（　　）（　　）

四 下面形體各是用幾個 堆成的？填一填。每題 5 分，共 20 分

(1)

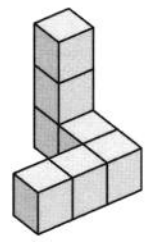

（　　）個

(2)

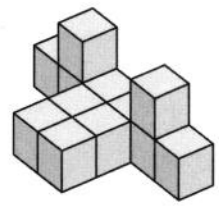

（　　）個

(3)



（　　）個

(4)



（　　）個

五 把做法用算式記下來。每題 7 分，共 21 分

(1) 櫻木排隊交作業，他排在第 4 個，後面還有 7 個，共有幾個人在排隊交作業？

算式：

有（　　）個

(2) 緋村在星期六做了 6 朵胸花，星期日比星期六多做了 5 朵，他在星期日做了幾朵胸花？

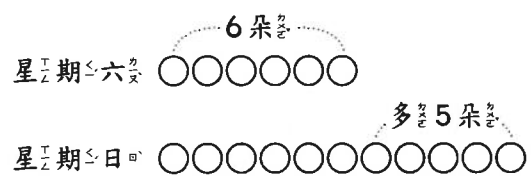

算式：

做了（　　）朵

(3) 炎柱買了 14 個包子，其中 8 個是肉包，其他是菜包，菜包有幾個？

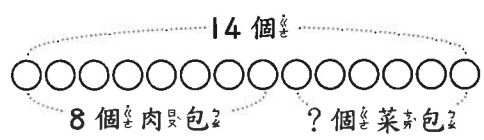

算式：

有（　　）個