南一門市 數學 第18回

# 8. 二位數的加減 (2)

_____年_____班_____號

姓名_____

## 一 填填看。每格 4 分，共 16 分

(1) 如果有 4 個⑩，要減掉 5 個①，會先把 1 個⑩換成（　　）個①，減掉 5 個①後，剩下（　　）個⑩和（　　）個①。

(2) 接續上題，若小明不小心把「－」看成「＋」，那麼小明所得到的答案是（　　）。

## 二 畫⑩和①算算看。每題 5 分，共 20 分

(1) 12＋36＝(　　)

(2) 23＋8＝(　　)

(3) 22－8＝(　　)

(4) 30－8＝(　　)

## 三 看圖畫⑩和①算算看。

每題 8 分，共 24 分

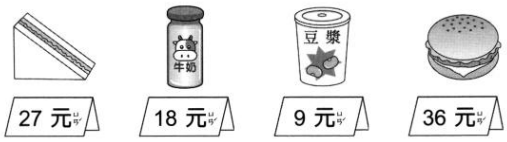


(1) 買一瓶牛奶和一杯豆漿，共要付幾元？

付（　　）元

(2) 一瓶牛奶比一杯豆漿多幾元？

多（　　）元

(3) 小智有 50 元，買一杯豆漿後，小智還剩下幾元？

剩下（　　）元

## 四 看圖填填看。每格 4 分，共 16 分

(1)

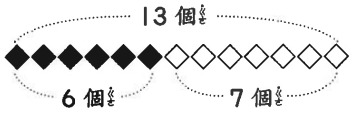


6＋7＝（　　）　13－6＝（　　）

(2)

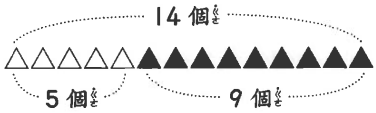


5＋9＝（　　）　14－9＝（　　）

## 五 先列出算式，再畫⑩和①算算看。每題 8 分，共 24 分

(1) 今天公司有 33 個員工請假，其中 8 個是請病假，其他是請事假，請事假的員工有幾個？

算式：

有（　　）個

(2) 一輛遊覽車有 42 個座位（不含司機），9 個學生乘坐後，還有幾個空位？

算式：

還有（　　）個

(3) 老師請學生喝飲料，喝綠茶的學生有 17 個，比喝紅茶的少 4 個，喝紅茶的學生有幾個？

算式：

有（　　）個