南一版 1下 數學 第22回

第二次成績考查 (2)

適用於兩次段考　範圍：第 6 單元～第 9 單元

_____年_____班_____號

姓名_____

一 填填看。每格 4 分，共 20 分

(1) 比 36 大 4 的數是（　　），
比 50 小 6 的數是（　　）。

(2) 如果有 2 個⑩，要減掉 8 個①，會先把 1 個⑩換成（　　）個①，減掉 8 個①後，剩下（　　）個⑩和（　　）個①。

二 根據題目回答下面問題。

每答 6 分，共 24 分

(1) 下面是哥哥錢包裡的錢幣，共有（　　）元。



(2) 哥哥的錢可以買下面哪些東西？在（　）裡打V。

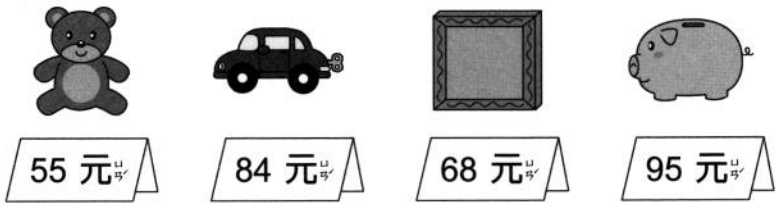

（　　）　（　　）　（　　）　（　　）

(3) 水仙想要買一盒 69 元的蜂蜜蛋糕，她只有下面的錢，還需要再跟哥哥要幾元才會剛好？用⑩、⑤和①表示錢幣，畫畫看：（須考慮哥哥錢包裡的錢幣）

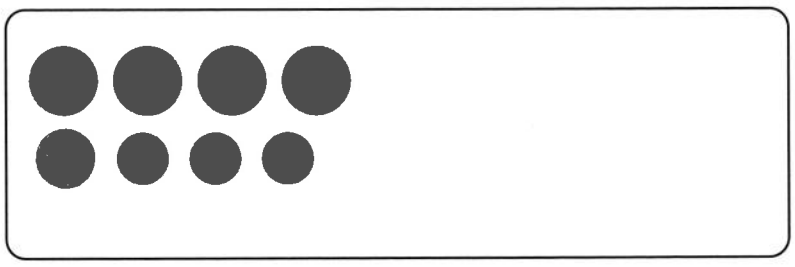

三 看圖填填看。每格 5 分，共 10 分

20－8＝（　　）　　12＋8＝（　　）

四 下面記錄了補習班 10 月分每天負責倒垃圾的學生。

每答 4 分，共 32 分

(1) 把結果用「正」字畫記，完成下表。

學生				
畫記				

(2) 星期（　　）和星期（　　）不用倒垃圾。

(3) 誰倒最少次垃圾？圈圈看。

（　　，　　，　　，　　）

(4) 10 月的第 2 個星期日，　　要請假，那天是 10 月（　　）日。

五 先列出算式，再畫⑩和①算算看。每題 7 分，共 14 分

(1) 導護志工須發感謝狀，女性志工有 33 個，比男性多 7 個，男性志工有幾個？

算式：

有（　　）個

(2) 帕克和比利兩人合買一個筆筒，帕克出了 22 元，比利出了 16 元，一個筆筒賣幾元？

算式：

賣（　　）元